107年第二次交通部航海人員測驗【601】二等船副【000016】貨物作業概要

(A) 1. 貨物重量英文專有名詞Hogging，其中文意義為何？
A. 拱曲
B. 中垂
C. 艉重
D. 艏重

(B) 2. 某船排水量10000噸，裝150噸淡水，1000噸油300噸補給，今欲裝載小麥(S.F.為 53立方呎/噸)，該船共有四艙，各艙容積如下： NO1.152000立方呎；NO2. 157000立方呎；NO3.131000立方呎；NO4.103000立方呎，問第三艙可裝多少貨物？
A. 2962噸
B. 2472噸
C. 1943噸
D. 2868噸

(A) 3. 貨物性質之英文專有名詞Hard molasses，其中文意義為何?
A. 固體糖蜜
B. 鹽魚
C. 粉炭
D. 黑鉛

(B) 4. 一噸貨物裝在艙中，所佔立方體積之平均數，其並非貨物一噸重的實際體積，應包括裝載損耗及墊材在內，稱為下列何者？
A. Broken Stowage
B. Stowage Factor
C. Bale Capacity
D. Grain Capacity

(D) 5. 下列有關積載因素(Stowage factor)的敘述，何者正確？
A. 貨物積載因素越大，所佔艙位越小
B. 貨物比重越大，積載因素越大
C. 貨物積載因素越小，比重越小
D. 貨物積載因素越小，所佔艙位越小

(C) 6. 某船有一貨艙容積5000立方呎，欲裝單位尺寸為90立方呎的貨物，問總計最多可裝多少單位之貨物？
A. 53
B. 54
C. 55
D. 56

(D) 7. 船舶裝載機械類設備貨物，下列何種狀況下貨艙將產生汗水？
A. 艙內空氣溫度高於外界空氣溫度
B. 外界空氣露點低於貨物溫度
C. 外界空氣溫度低於貨物溫度艙內空氣溫度高於外界空氣溫度
D. 艙內空氣露點高於貨物溫度

(B) 8. 除了舷牆欄杆，舷牆支柱，領港登船處等需留出適當的餘裕外，甲板木材貨應儘量靠近兩舷，在兩舷所產生的積載空隙（Broken Stowage），不應超過船舶寬度平均值的百分之多少？
A. 2
B. 4
C. 6
D. 8

(A) 9. 船舶裝載穀物時，貨物品質的落差，主要由誰承擔？
A. 貨物供應者
B. 船舶使用人
C. 船東
D. 貨物裝卸人

(D) 10. 下列圖示靜水性能曲線圖，用平均吃水7.6公尺，求取船舶各項靜水性能數值，如排水量

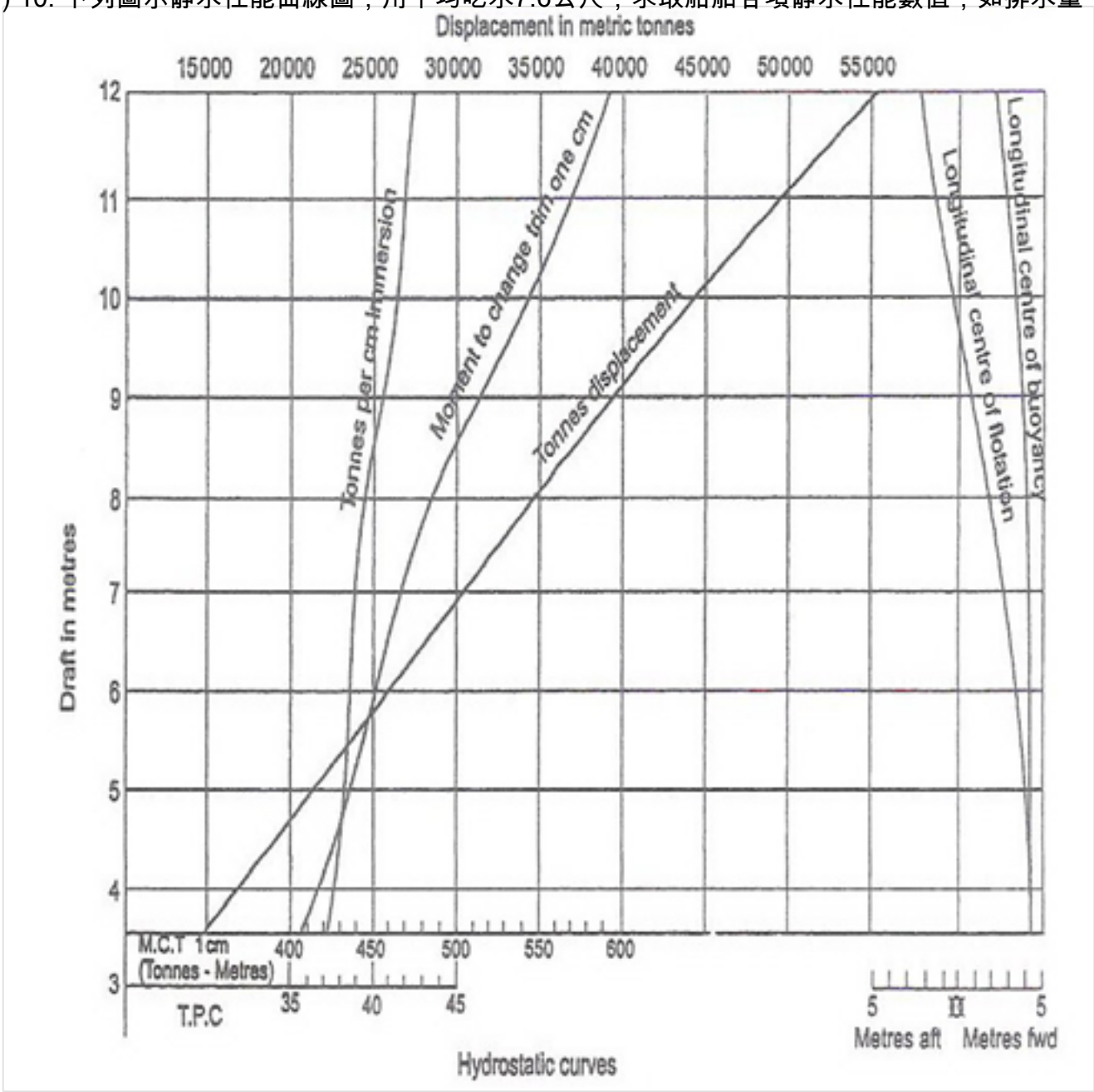

= ?
A. 30000噸
B. 31000噸
C. 32000噸
D. 33000噸

(A) 11. 在貨物積載圖中，二層艙的斜線表示什麼？
A. 上、下部分
B. 左、右部分
C. 前、後部分
D. 右上斜半艙、左下斜半艙

(C) 12. 某散裝船艏吃水9.4公尺，艉吃水10.6公尺，船舶在Hogging狀態下，求船中吃水為何？
A. 吃水大於10.6公尺
B. 吃水大於10公尺
C. 吃水小於10公尺
D. 資料不足，無法求取

(A) 13. 船舶裝載穀物時，肩翼艙的艙間裝載，下列何者錯誤？
A. 肩翼艙的裝載可以增加穩定性
B. 增加載貨空間
C. 填補艙間下沉的間隙
D. 相較貨艙貨物移置範圍小

(C) 14. 貨櫃船Bay Plan內每一貨櫃位置圖均有資料如附圖，圖示6左下角英文字母8 3265是指危險品等級8 至於3265是何意義？

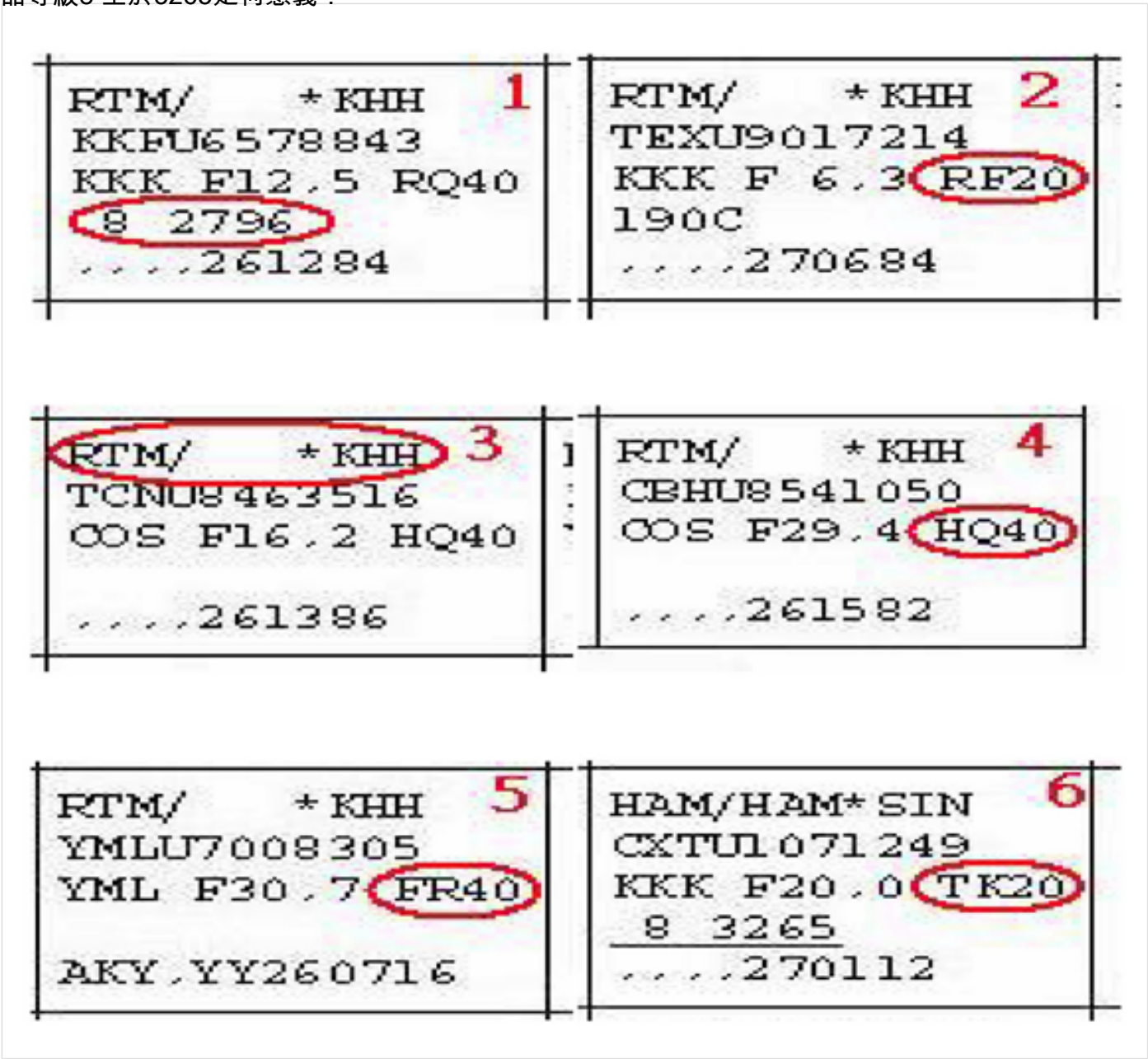

A. 艙單號碼
B. 提單號碼
C. 聯合國編號
D. 裝貨位置

(D) 15. 重量單位中，一長噸等於幾英磅？
A. 1000
B. 2000
C. 2200
D. 2240

(B) 16. 國際海運危險品準則之「危險貨物一覽表」第1欄位係標示下列何項？
A. 正確運輸名稱
B. 聯合國編號
C. 危險性類別
D. 包裝等級

(B) 17. 下列何者為目前穀類貨物之主要裝卸工具？
A. Forklift
B. Pneumatic Conveyor
C. Floating Crane
D. Gantry Crane

(B) 18. 地帶及季節性區域圖，將全球之水域分成夏季、熱帶、北大西洋冬季及下列哪一季節區?
A. 寒帶
B. 冬季
C. 秋季
D. 春季

(A) 19. 依據國際海運危險品準則的規範，圖示標記係指下列何項危險貨物？



A. 海洋污染物
B. 放射性物質
C. 爆炸物
D. 易燃物

(A) 20. 國際海運危險品準則之「危險貨物一覽表」第2欄位的縮寫名稱為"PSN"，係指下列何義？
A. 正確運輸名稱
B. 貨物儲放位置
C. 危險貨物類別
D. 貨物包裝等級

(A) 21. 國際海運危險品準則之「危險貨物一覽表」第9欄位係標示「包裝規定」，即包裝的特殊規定，試問下列何項標示不正確？
A. P001
B. PP31
C. PP88
D. L1

(A) 22. 裝載袋裝麵粉、穀類所使用墊材為二層，上層為支持袋裝貨物，下層為使貨物汗濕時所流出的水順利排出，免其墜壓接觸艙底甲板，問上層墊材間的間隔約為幾吋？
A. 1
B. 4
C. 6
D. 8

(C) 23. 穀類船（Grain Carrier）為避免貨物的自由液面效應，可在那一艙間中裝載貨物？
A. 堰艙（Cofferdam Tank）
B. 艏尖艙（ Fore Peak Tank）
C. 肩翼艙（ Shoulder Tank）
D. 二層底艙（Double Bottom Tank）

(A) 24. 船舶裝載散裝固體貨物如果發現貨物含水量有問題時，則船上能做的含水量簡易測試是哪一個？
A. 箱罐測試（Can Test ）
B. 流盤試驗（Flow table test）
C. 壓入試驗（Penetration test）
D. 以上皆是

(A) 25. 穀物散裝之運輸特性，隔艙設備，下列何者錯誤？
A. 隔艙板設置可增加穀物裝載空間
B. 隔艙板設置要縱向於艙間，板厚至少5公分以上
C. 隔艙板設置之支柱間隔要求保持小於50倍板厚度
D. 隔艙板用以減少穀物移動

(C) 26. 船舶復原力矩公式: M ＝ W × GZ，其符號W代表何意?
A. 船舶長度
B. 船舶寬度
C. 船舶重量
D. 船舶體積

(A) 27. 化學輪甲級船員以上船員裝卸油貨須熟悉下列何種國際章程？
A. IBC Code
B. IMSBC Code
C. FSS Code
D. ISM Code

(A) 28. 圖中(？)部位，貨艙艙蓋繫固設施（Securing Device of Hatch Cover）名稱為何？

A. Gasket
B. Compression bar
C. Cleat
D. Hatch coaming

(B) 29. 最大繫固負荷（MSL）為船舶繫固貨物設備之負荷能力，如同吊貨裝具之何者？
A. 重量工作負荷
B. 安全工作負荷
C. 比重工作負荷
D. 斷裂工作負荷

(B) 30. 裝載煤貨時，為何要將貨艙內的墊板（Cargo battens）拆除？
A. 易於通風
B. 避免新鮮空氣進入
C. 便於裝卸貨
D. 可以多裝載煤貨

(D) 31. 貨櫃裝卸進行期間，船方當值人員應注意事項很多，下列敘述何者錯誤？
A. 對於任何眼見破損或狀況不良之貨櫃，應即加以記錄並書面通知裝卸單位
B. 櫃門如未緊密應即糾正
C. 櫃門處均應加鉛封，如鉛封失落或折斷應即糾正
D. 船舶傾斜，致無法裝卸時，無須立即處理

(B) 32. 載運散裝穀類之船舶，貨艙中設置隔艙板（Shifting Board），其主要目的為何？
A. 防止穀類下沉
B. 防止穀類移動
C. 促進穀類呼吸
D. 降低貨艙溫度

(D) 33. 冷凍貨櫃於裝載時船方運作要點很多，下列敘述中，何者不正確？
A. 船上接受櫃前，應作載前檢查，櫃及貨是否到達託運人指定溫度
B. 有懷疑或必要時得開櫃或安排檢定師查驗貨品情況，或拒絕收受
C. 冷凍櫃裝船前船方應對船上分布各艙區之冷凍插座、電路體系及各項關連設備詳加預檢
D. 到港前二十四小時即可拔下冷凍櫃插頭，以方便卸貨

(C) 34. 某船某艙的艙容積為10,000立方公尺，實際裝貨體積為8,000立方公尺，則裝載損率（Ratio of broken stowage）為多少％？
A. 10
B. 15

C. 20
D. 25

(C) 35. 油輪清洗貨油艙後並將洗艙水排入下列何艙間，以便確保艙底未積聚洗艙水？
A. 其他貨油艙
B. 雙重底艙
C. 污油艙
D. 壓載艙

(B) 36. 國際海運危險品章程將危險品分為幾大類？
A. 10
B. 9
C. 8
D. 7