107年第三次交通部航海人員測驗【301】一等船副【000005】船舶操作與船上人員管理

(B) 1. 油污染發生時應立即指派特定的政府機關或現場指揮官全權負責相關應變作業行動，下列何者為現場指揮官簡稱？
A. CSP
B. OSC
C. CRS
D. RCC

(A) 2. 防止船舶污染國際公約所規定之濾油設備，旨在處理何處所產生的油水混合物？
A. 機艙
B. 污油艙
C. 泵間
D. 貨油艙

(A) 3. 請問有關濾油設備之規定屬於MARPOL73/78公約哪個附則？
A. I
B. II
C. III
D. IV

(C) 4. 依據SOLAS公約附錄規則第九章，安全管理證書(SMC)應由主管機關或主管機關認可的組織核發，該證書有效期限不得超過幾年？
A. 1
B. 3
C. 5
D. 7

(D) 5. 如圖所示，請問圖中丁處之艙壁稱之為何？

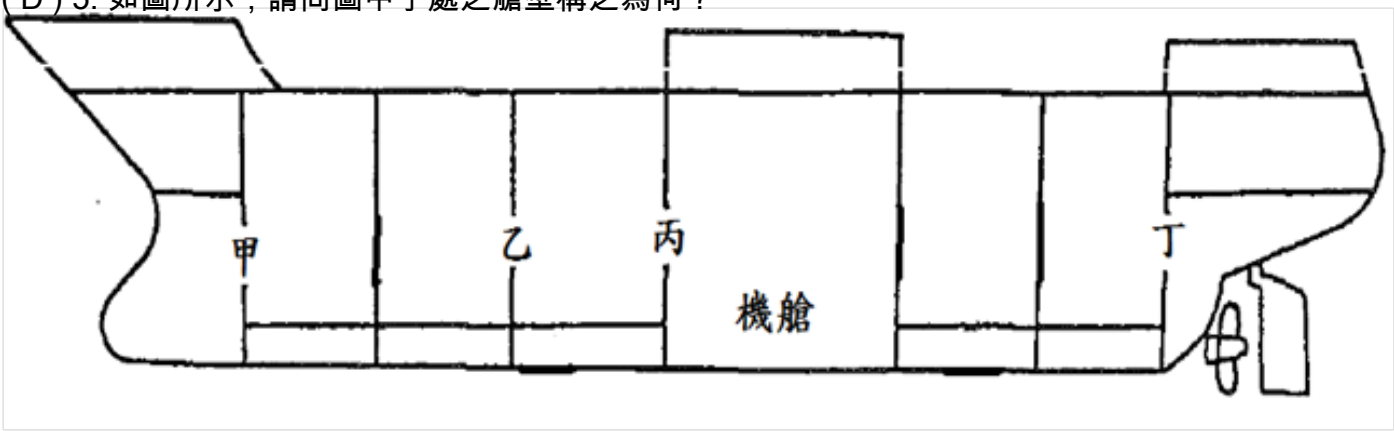

A. 防撞艙壁
B. 貨艙艙壁
C. 機艙艙壁
D. 艉尖艙壁

(D) 6. 依MARPOL公約規定，主管機關應承允總噸位未滿多少之船舶儘可能配置留存機艙所產生的含油混合物之設備？
A. 250
B. 300
C. 350
D. 400

(B) 7. 某船在標準海水中平均吃水爲5.23 m，淡水修正量（FWA）＝24cm，試求當船進入港內水

域密度1005kg/m^3 時平均吃水？
A. 5.36 m
B. 5.42 m
C. 5.48 m
D. 5.54 m

(C) 8. 當船體正浮時，船貨裝載於其吃水面的浮面中心前方的船舶吃水情形為何？
A. 平浮
B. 平沉
C. 艏俯
D. 艉俯

(B) 9. 某雜貨船長161 m，船艏吃水7.45 m，船艉吃水8.38 m，浮面中心位於船舯向後5.3 m處，今在船舯向前61 m處，加裝一批300噸重貨物，已知每公分排水量(TPC)為26.5噸，每公分俯仰差力矩(MTC)為207 t-m，試求該船貨載後的船艉吃水變化量(m)為何？
A. 0.26
B. 0.34
C. 0.45
D. 0.58

(A) 10. 船舶管路系統是設置在船體內各種管路的總稱，船身自管路因管內流體不同而性質各異，因此在各管路系統的重要部位，均有以不同顏色油漆標示的管路標誌，以供辨認和管理。請問標誌綠色之管路內流體為何？
A. 海水
B. 蒸氣
C. 淡水
D. 潤滑油

(A) 11. 船艏為船舶前端或近前端的部分，其形狀與船舶的航行性能及外形美觀、建造工藝等有關

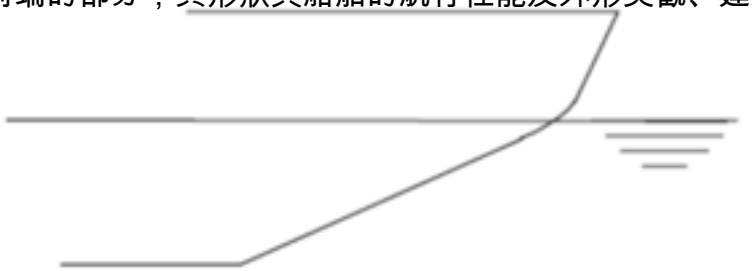

。請問圖中所示為何型船艏？
A. 梅爾型艏(Maier form bow)
B. 湯匙型艏(Spoon bow)
C. 曲線艏(Clipper bow)
D. 斜直艏(Raked bow)

(C) 12. 根據STCW公約規定，下列哪一項不是接班航行員應親自掌握的情況？
A. 與船舶航行有關之船長所頒布當值常規及其他特別指示
B. 船位、航向、航速及吃水
C. 甲板日常保養工作的進度，是否符合公司國際安全管理章程(ISM)手冊要求
D. 當主機在駕駛台操控時之主機操縱之使用程序

(A) 13. 根據STCW公約規定，下列何者不是能見度受限制時，當值船副應遵照國際海上避碰規則應採取的行動？
A. 避免過分依賴雷達，應以無線電及船舶自動識別系統(AIS)連絡他船，以期採取正確的避讓措施
B. 霧號之施放，正確顯示航行燈
C. 通知船長，並派人就瞭望位置

D. 以安全航速航行，並使主機備便

(D) 14. 執行港口國管制(Port State Control)時，下列有關其檢查之敘述何種錯誤？
A. 依有關證書及其他文件之有效期限來確定該船建造年份與大小，以決定適用之公約
B. 檢查範圍包括船舶及其各項設備與船員之各種狀況之查核
C. 檢查結束應簽署檢查報告表
D. 港口國所採取之扣船行動，不得影響船舶離港之正常船期

(B) 15. 為促進國際商港建設及發展而收取之商港服務費，其收取保管及運用辦法，係由下列何者擬訂並報請主管機關核定？
A. 交通及建設部
B. 航港局
C. 港務公司
D. 航政司

(C) 16. 吃水尺度是表示船舶吃水的標示，請問圖上標示甲處之吃水為多少？

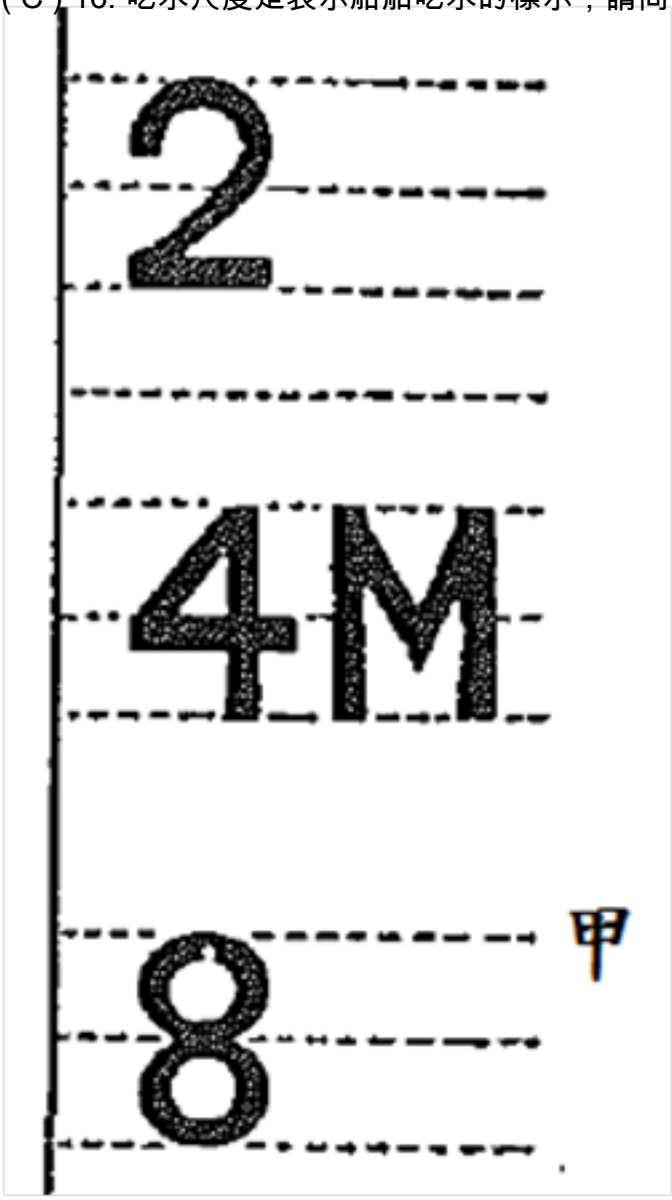

A. 3.80 (m)
B. 3.85 (m)
C. 3.90 (m)
D. 4.00 (m)

(C) 17. MARPOL 73/78國際公約附則V之名稱為下列何者？

A. 防止油污染規則
B. 防止污水污染規則
C. 防止船舶垃圾污染規則
D. 防止船舶空氣污染規則

(C) 18. 依MARPOL 73/78國際公約規定，1982年6 月1日以後交船之原油船，載重噸超過多少即應設置隔離壓載艙？
A. 10,000
B. 15,000
C. 20,000
D. 30,000

(B) 19. 請問何者為「船上油污染應急計劃」之縮寫？
A. COW
B. SOPEP
C. SMPEP
D. SBT

(D) 20. 貨船結構、機器和裝備應接受的初次檢驗，不包括下列哪個項目？
A. 船體結構配置、材料、尺寸與工藝
B. 鍋爐與其他壓力櫃及其附屬品
C. 主機與輔機，包含操舵裝置及其相關控制系統
D. 新船下水營運所必須的燃油和淡水的品質

(A) 21. 關於港口國管制(Port State Control)的檢查，以下敘述何者正確？
A. 港口國管制係基於船舶及人員之安全，但執行管制之官員尚應盡所有可能之努力，以避免船舶遭受不當之滯留或遲延
B. 無論在任何情況下，港口國檢查官員（PSCO）都無權對在船上服務的航海人員之能力產生懷疑或予以評估
C. 港口國檢查官員（PSCO）無權檢查在船上服務航海人員相關證書，該項檢查應由船旗國政府、或其認可機構實施
D. 檢查結束應簽署檢查報告表，分甲式一般報告、乙式缺點報告及丙式扣船報告

(D) 22. 當船舶海上航行時，適逢波谷到達船舯位置，此刻船舶應處於何種狀態？
A. 舯拱
B. 舯浮
C. 舯伏
D. 舯垂

(C) 23. 下列有關實習生資格之敘述，何者錯誤？
A. 在船實習期間不得超過二年
B. 在實習期間視同海員
C. 曾服務於船舶修造廠二年以上者
D. 年齡滿十六歲

(D) 24. 船舶的「登記尺度」是用來計算下列何者？
A. 吃水差
B. 水阻力
C. 船舶穩度
D. 船舶噸位

(C) 25. 依STCW公約規定，凡申請總噸位500至3000之船長證書者，除應符合在總噸位500以上船舶負責航行當值航行員之要求，並需具有在該職務之認可海勤資歷至少多少個月？

A. 12
B. 24
C. 36
D. 48

(A) 26. 某輪船長90公尺，浮面中心在船舯後1.5公尺處，艏吃水4.50公尺，艉吃水5.00公尺，TPC為10公噸，MTC為120噸-公尺；本日擬將450公噸貨物裝於船舯前14公尺處，則船舶新吃水應為下列何者？
A. 艏吃水為5.25公尺、艉吃水為5.17公尺
B. 艏吃水為5.2公尺、艉吃水為5.23公尺
C. 艏吃水為5.15公尺、艉吃水為5.30公尺
D. 艏吃水為5.30公尺、艉吃水為5.13公尺

(A) 27. 適用SOLAS第III章和第IV章規定之貨船，其無線電裝置定期檢驗（Periodical survey）之實施，下列敘述何者正確？
A. 證書上所載每週年日之前後3個月內
B. 證書上所載第2個週年日之前後3個月內
C. 證書上所載第3個週年日之前後3個月內
D. 可替代一次歲檢

(A) 28. 凡申請簽發大副證書且能在總噸位3000以上船舶擔任大副者，應符合在總噸位500以上船舶負責航行當值甲級船員之發證規定，並具有在該職務之認可海勤資歷至少達幾個月？
A. 12
B. 18
C. 24
D. 36

(B) 29. 依載重線國際公約規定，甲板線係標於船舯部兩舷外板上之水平線段，其長度為多少公釐？
A. 200
B. 300
C. 400
D. 450

(D) 30. 依國際安全管理章程（ISM Code）規定，下列有關安全管理證書有效期限最長幾年？
A. 2
B. 3
C. 4
D. 5

(A) 31. 依照SOLAS 第九章船舶安全營運管理，下列船舶何者不適用？
A. 總噸未滿500之油化船
B. 總噸500以上之近海移動式鑽探平台
C. 總噸未滿300之客船
D. 總噸500以上之油輪

(D) 32. 依SOLAS之規定，為供岸上消防人員參考使用，所有船舶應將火災控制圖或包含該圖之使用手冊複本，永久置放何處？
A. 甲板室內具有明顯標誌之處
B. 辦公室內具有明顯標誌之水密封套內
C. 住艙走道具有明顯標誌之處
D. 甲板室外具有明顯標誌之風雨密封套內

(D) 33. 下列對於船舶保全警戒系統之敘述，何者為非？
A. 能由駕駛台啟動
B. 船上不會發出任何警報
C. 發送給主觀機關與公司
D. 發送給護航艦船

(B) 34. 依「船舶和港口設施保全國際章程」規定，那一個保全等級須要最高度警覺？
A. 4
B. 3
C. 2
D. 1

(A) 35. 船舶定傾中心高度值之變化與下列何者無關？
A. 船舶長度
B. 船舶排水量
C. 船舶重心高度
D. 船舶橫向穩心高度

(B) 36. 船舶依海上人命安全國際公約（SOLAS）相關規則完成任何一項檢驗後，其結構上之佈置、機器、設備及其他經檢驗之項目，在何種情況下得予以變更？
A. 視航務之需要
B. 經主管機關之核准
C. 發生事故之後
D. 經船舶所有人之同意

(B) 37. 下列何者不是國際安全管理章程所賦予船長之責任？
A. 執行公司之安全保護政策
B. 執行港口設施保全計畫
C. 執行公司之環境保護政策
D. 審查安全管理制度

(D) 38. 依現行商港法，欲於商港區域內敷設給水管道應經何單位同意？
A. 經濟部
B. 內政部
C. 商港區域所在地直轄市政府
D. 商港經營事業機構

(C) 39. 船舶裝卸貨而發生吃水及艏艉吃水差之變化，縱向俯仰之轉軸是下列何者？
A. 通過浮心之橫軸
B. 通過重心之橫軸
C. 通過浮面中心之橫軸
D. 通過穩心之橫軸

(D) 40. 除國際載重線公約另有規定外，船舶出海後於航行中或抵達時，依其季節及區域之不同，兩舷載重線與水線的關係為何？
A. 可以浸沒
B. 因情況緊急時可以浸沒
C. 偶爾因天候情況，可以浸沒
D. 在任何時間內，均不應予以浸沒