# 107年第四次交通部航海人員測驗【301】一等船副【000002】航行安全與氣象

( D ) 1. 在狹窄水道或適航水道行駛，於安全且實際可行時，應靠何側航行？
A. 應盡量靠近水道或適航水道之中間行駛
B. 應盡量靠近分道航行區(線)行駛
C. 應盡量靠近水道或適航水道之左側行駛
D. 應盡量靠近本船右舷水道或適航水道之外側行駛

( D ) 2. 在濃霧中，兩艘用AIS互相辨識，交叉相遇的船，以右舷綠燈朝對方的是帆船，以左舷紅燈面對來船的是漁船，依避碰規則誰該讓誰？
A. 帆船該讓
B. 漁船該讓
C. 雙方均是直航船
D. 雙方均是讓路船

( B ) 3. 在航行當值，當能見度降低時，下列採取的措施中，何者為錯誤的？
A. 通知船長
B. 採用自動舵航行
C. 使用雷達及測繪附近船舶
D. 按避碰規則鳴放霧號

( D ) 4. 有關船舶港內繫泊當值的敘述，下列何者正確？
A. 繫泊時如需調整纜繩，可以快速鬆出纜繩
B. 可以在繫泊區排放污水
C. 繫泊時，只需要鬆鬆的繫住纜繩即可
D. 在轉潮時或在有較大潮差之船席時，應保持繫泊纜索適當穩固

( A ) 5. 下列何者不包含在搜索行動計畫與訊息內？
A. 搜索任務協調官宣告搜索之行動計畫失敗
B. 由搜索任務協調官提供搜索行動計畫
C. 現場協調官與現場之搜救任務編組執行搜索行動計畫
D. 現場協調官居於現場之考量，得經由搜救任務協調官之授權改變搜索行動計畫

( B ) 6. 下列何者與搜索行動計畫所包含之搜索區域無關？
A. 指派區域
B. 天氣預報
C. 搜索區域之大小
D. 搜索區域之中心點與圓圈半徑

( D ) 7. 救助艇（Rescue boat）上的成員除了要接受足夠的小艇操縱訓練外，還要具備什麼能力？
A. 測定船位
B. 機具維修
C. 施放信號彈
D. 處理與救助生還者

( D ) 8. 引水人在駕駛台領航時，當值航行員之職責可不包括那項？
A. 注意引水人之車舵令及舵工操舵之正確與否
B. 如何帶纜與繫泊作業
C. 本船運轉與操縱特性報告引水人
D. 與拖船船長聯繫

( C ) 9. 下列那項是分道通航制（Traffic Separation Scheme）之適切定義？
A. 為減少海難危險而規劃之一條或數條航道或定線措施之系統
B. 國際海事組織採用之一個定線制，強制所有船舶、特定種類船舶或載運特定貨物之船舶使用

C. 為分隔相反方向航行之船流，以適當方法建立航行巷道之一種定線措施
D. 指介於某特定水域向岸一側之邊界與其鄰近海岸間之指定區域所構成之定線措施

( B ) 10. 一般在搜救現場協調時，以最先到達現場機構負責人承擔現場協調官之功能，直到何人解除該員任務為止？
A. 現場協調官〈OSCs〉
B. 搜救任務協調官〈SMCs〉
C. 搜救協調官〈SCs〉
D. 參與搜索之搜救隊長

( B ) 11. 自動互助船舶救助系統〈AMVER〉，其運作專供支援搜救作業，並提供資訊供所有救助協調中心使用，此系統乃係？
A. 區域性系統
B. 全球性系統
C. 歐洲系統
D. 北美系統

( C ) 12. 當海面開始由高潮下落到最低位置時，會有一段時間海水呈現不落也不漲的狀態，稱作：
A. 平潮
B. 低潮
C. 停潮
D. 長潮

( B ) 13. 下列何者並非船上上層建築物所存在冰花凍結成冰的主要原因？
A. 氣溫0℃以下
B. 相對濕度85％以上
C. 海水溫度8℃以下
D. 風力在四級以上

( A ) 14. 國際海上避碰規則COLREG 第二章Part B 中，有三小節section，何小節的條文，要無條件優先適用？
A. 第一節
B. 第二節
C. 第三節
D. 視情況而定

( B ) 15. 寬闊海域彼此互見情況下，一艘作業中漁船追越一艘帆船，有碰撞之危機，誰該讓誰？
A. 帆船讓漁船
B. 漁船讓帆船
C. 漁船、帆船需彼此互讓
D. 若帆船順風應讓漁船，若帆船逆風則漁船應讓帆船

( B ) 16. 「在一定之界限內，由一分隔點或圓形分道區與圓形航行巷道所組成之定線措施。」，上述是屬於下列那項之定義？
A. 建議航道
B. 環航道
C. 航行巷道
D. 深水航道

( C ) 17. 船上緊急部署表之基本內容，包括棄船和消防兩種緊急情況，下列資料何者無須列示於部署表內?
A. 船舶及公司名稱，船長署名及公佈日期
B. 應變具體指揮人員的接替人

C. 船舶緊急事件時所在之船位
D. 航行中駕駛台、機艙、無線電台守值人員及其任務

( B ) 18. 在滅火部署表中，任務規劃為「在駕駛台協助值班，聯絡通訊及聽候關閉總送風機」者，係規範於何職位之任務?
A. 二副
B. 三副
C. 大副
D. 通用員

( A ) 19. 國際公約對於船舶操舵裝置之檢查與測試程序規範中，對於「駕駛台及舵機房內」應永久顯示之項目，下列何項未含括其內?
A. 操舵裝置動力裝置系統故障警報系統方塊圖
B. 操舵裝置動力裝置與遙控系統轉換程序方塊圖
C. 操舵裝置動力裝置系統轉換程序操作簡單說明
D. 操舵裝置遙控系統轉換程序操作簡單說明

( B ) 20. 下列我國海事相關法規中，何者規範「船舶拖帶」之權利與義務關係?
A. 船員法
B. 海商法
C. 商港法
D. 航業法

( D ) 21. 進行搜索計劃時，在決定搜索路徑間隔應考慮因素，下列何者為非？
A. 搜索船舶與飛機相互間之安全間隔
B. 搜索目標與氣象能見度
C. 海況及晝間時刻
D. 搜救船之速度

( B ) 22. 依國際海上避碰規則規定，顯示漁船群集捕魚時之增設信號號燈，於從事雙拖拖網作業收網時，應顯示何種號燈於一垂直線上？
A. 上紅下白
B. 上白下紅
C. 上白下綠
D. 上綠下白

( C ) 23. 下列何者為有關北太平洋在海洋氣候適航期上之正確敘述？
A. 北太平洋低緯度盛行西風，中緯度為東北信風
B. 在夏季生成於中國大陸經日本至太平洋的溫帶氣旋強度可達颶風層級
C. 北太平洋冬季以中緯度海域適航，夏季則以高緯度海域為適航區域
D. 此區在4月以後溫帶氣旋減弱，5～6月以後風暴活躍不適航行

( A ) 24. 本船真航向300，對地航速20節，目標船真航向210，對地速度20節，在本船右方相對方位045º，距離6海浬，若本船右轉90度，請計算目標船的CPA的變化量？
A. $\sqrt{18}$海浬
B. $\sqrt{20}$海浬
C. 3 海浬
D. 4 海浬

( A ) 25. Any action to avoid collision shall, if the circumstances of the case admit, be positive, is made in ample time and with due regard to the observance of good seamanship.出自國際海上避碰規則何條條文？

A. 第八條 避碰措施Rule 8 Action to avoid collision
B. 第七條 碰撞危機Rule 7 Risk of collision
C. 第六條 安全速度Rule 6 Safe speed
D. 第五條 瞭望Rule 5 Look-out

( C ) 26. 為維持航行當值應遵守之基本原則，下列哪項非為其有關定義之內容？
A. 在指定之時間內當班
B. 船副應具有適當資格
C. 在寬廣水域，無交通的條件，可短暫中斷瞭望
D. 規定張貼當值配置表

( C ) 27. 依國際海上避碰規則之規定，航行中之帆船應避讓下列那些船舶？①動力船舶 ②從事捕魚中之船舶 ③運轉能力受限制之船舶
A. ①②
B. ①③
C. ②③
D. ①②③

( A ) 28. 依照世界氣象組織（World Meteorological Organization, WMO）的規定，下列何者為標準天氣圖的觀測時間？
A. 0000，0600，1200，1800 UTC
B. 0300，0900，1500，2100 UTC
C. 0500，1100，1700，2300 UTC
D. 0400，1000，1600，2200 UTC

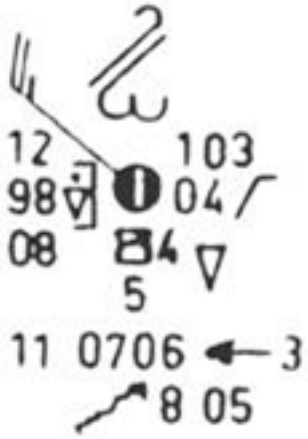


( C ) 29. 附圖為一海上測站填在天氣圖上的資料，則當時的海水溫度是：
A. 5℃
B. 8℃
C. 11℃
D. 12℃

( D ) 30. 暖濕的氣流對著山嶺吹，迎風面之氣流被迫抬升，因冷凝而產生之降水稱作什麼？
A. 氣流雨
B. 迎風雨
C. 冷凝雨
D. 地形雨

( A ) 31. 船舶岸壁效應(Bank Effect)的敘述，以下何者為真？
A. 與航道水深有關，與航道寬度有關
B. 與航道水深有關，與航道寬度無關
C. 與航道水深無關，與航道寬度有關
D. 與航道水深無關，與航道寬度無關

( A ) 32. 從氣溫變化來看，大陸性氣候有何現象？
A. 冬季和夏季溫差很大
B. 四季如春舒爽宜人
C. 冬季和夏季溫差變化不定
D. 要看是在南、北半球而定

( C ) 33. 圖中L 53°N，λ150°E的FOG[W]符號表示下列何者？

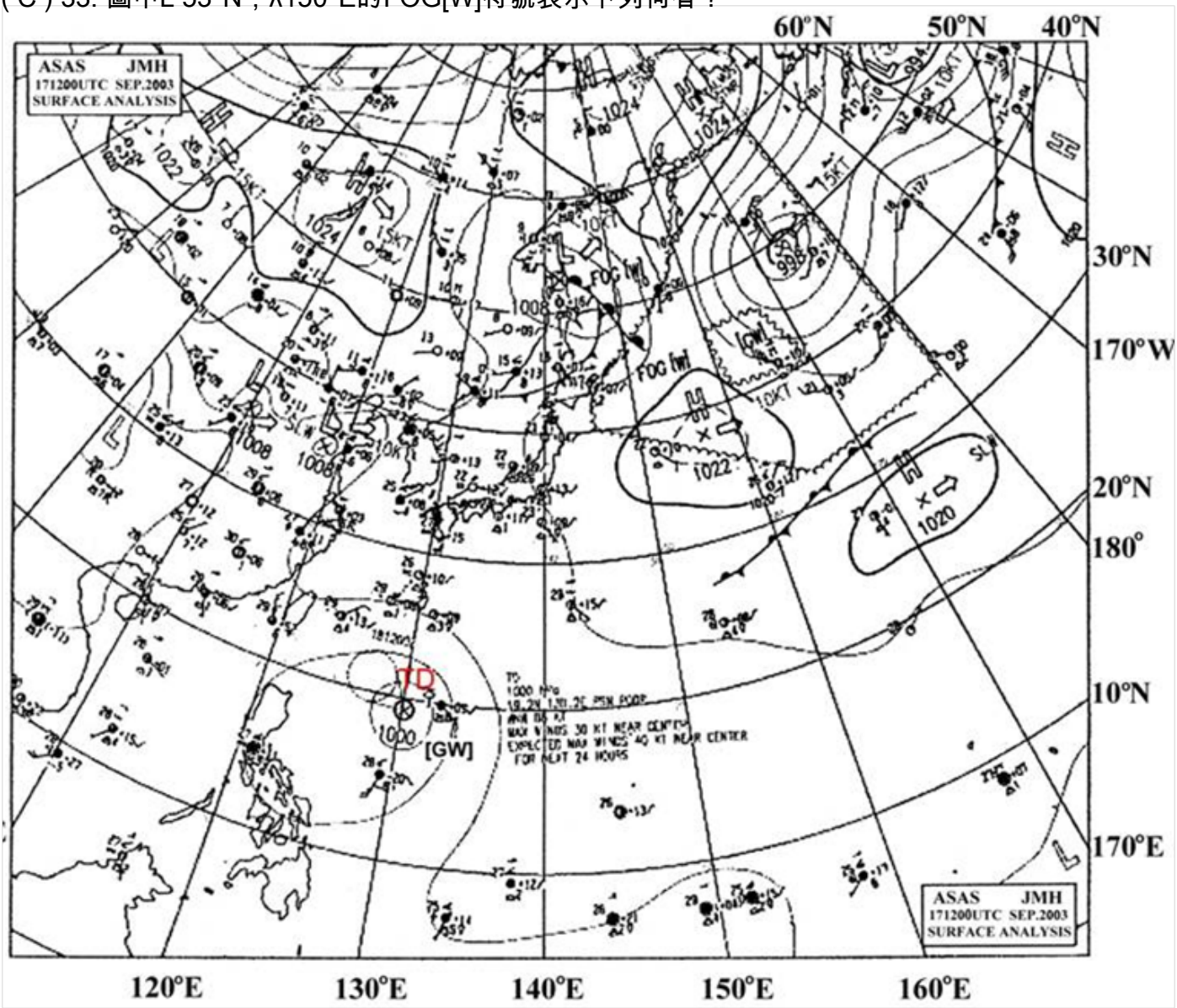


A. 高氣壓天氣
B. 大風警報
C. 濃霧警報
D. 颱風警報

( C ) 34. 航行中，能見度受限制時，應於每不逾兩分鐘內鳴放一長聲兩短聲之船舶為何？
A. 被拖船
B. 動力船舶
C. 受吃水限制之船舶
D. 引水船

( D ) 35. 下列何者受到附近雷達所發射脈衝之激發後，其自動發射之信號會顯示於該雷達螢幕上？
A. EPIRB

B. NAVTEX
C. NBDP
D. SART

( C ) 36. 正橫後方來風，靜止中的船舶，其船首會如何偏轉？
A. 向下風偏轉，直到正橫方向受風為止
B.向下風偏轉，直到正船尾方向受風為止
C.向上風偏轉，直到正橫方向受風為止
D.向上風偏轉，直到正船首方向受風為止

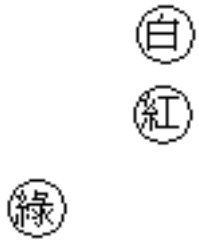


( C ) 37. 於夜間瞭望時，看到他船顯示號燈如附圖，應為何種船？
A. 航行中之非從事拖網捕魚
B. 操縱失靈船舶，對水面移動時
C. 航行中之從事引水業務之船舶
D. 從事引水業務之船舶錨泊時

( B ) 38. 在下列那些狀況下，當值航行員應立即報告船長？①發現遇難人員或船舶以及他船求援時 ②在惡劣天氣中，懷疑可能有氣象危害時 ③發現來船而含有碰撞危機時 ④能見度突然變差時
A. ①②③
B. ①②④
C. ①③④
D. ②③④

( C ) 39. 地球周圍的大氣層通常按照溫度的垂直分布由地表向上劃分為四層，以下何者為非？
A. 中氣層
B. 增溫層
C. 輻射層
D. 平流層

( B ) 40. 下列何者不是造成船舶擱淺或觸礁的主要原因之一？
A. 沿岸航行時，定位錯誤
B. 船舶吃水較深
C. 使用資料不精確的海圖
D. 航行員不熟悉船舶操縱性能