107年第四次交通部航海人員測驗【601】二等船副【000014】航行安全與氣象概要

(B) 1. 颱風暴風半徑是指颱風中心向外到幾級風處的距離？
A. 六級
B. 七級
C. 八級
D. 九級

(B) 2. 天氣圖的製作用以完成各種天氣系統的預報，一般由收報開始前後合共幾個階段來完成氣象發佈？
A. 五個階段
B. 六個階段
C. 七個階段
D. 八個階段

(C) 3. 兩艘帆船，在分道航行區內交叉相遇，有碰撞之危機，誰該讓誰？
A. 橫越分道區的船，要讓順分道區航行的船
B. 右舷綠舷燈面對他船的船，要避讓他船
C. 左舷受風或上風之船應避讓他船
D. 右舷受風或下風之船應避讓他船

(C) 4. 能見度不良，小船能看見大船，但大船無法發現小船，此種情況應如何適用規則？
A. 優先適用Part B - Steering And Sailing Rules Section III - Conduct of vessels in restricted visibility其次適用Section II - Conduct of vessels in sight of one another
B. 優先適用Part B - Steering And Sailing Rules Section I - Conduct of vessels in any condition of visibility其次適用Section II - Conduct of vessels in sight of one another
C. 優先適用Part B - Steering And Sailing Rules Section I - Conduct of vessels in any condition of visibility其次適用Section III - Conduct of vessels in restricted visibility
D. 優先適用Part B - Steering And Sailing Rules Rule 19 Conduct of vessels in restricted visibility

(C) 5. 依 STCW 章程規定，下列有關航行設備之測試，下列那項敘述是錯誤的？
A. 測試之後應作成紀錄
B. 進出港之前應事先進行測試
C. 航行期間應盡量避免測試
D. 預知可能遭遇強浪時應加強測試

(D) 6. 航行海上遭遇碰撞時，下列何項並非其應變措施？
A. 運轉船舶以減少受損程度
B. 鳴放音響信號
C. 準備碰墊
D. 顯示號燈或號標

(B) 7. 有關分道通航制，下圖之標示4，代表何種意義？

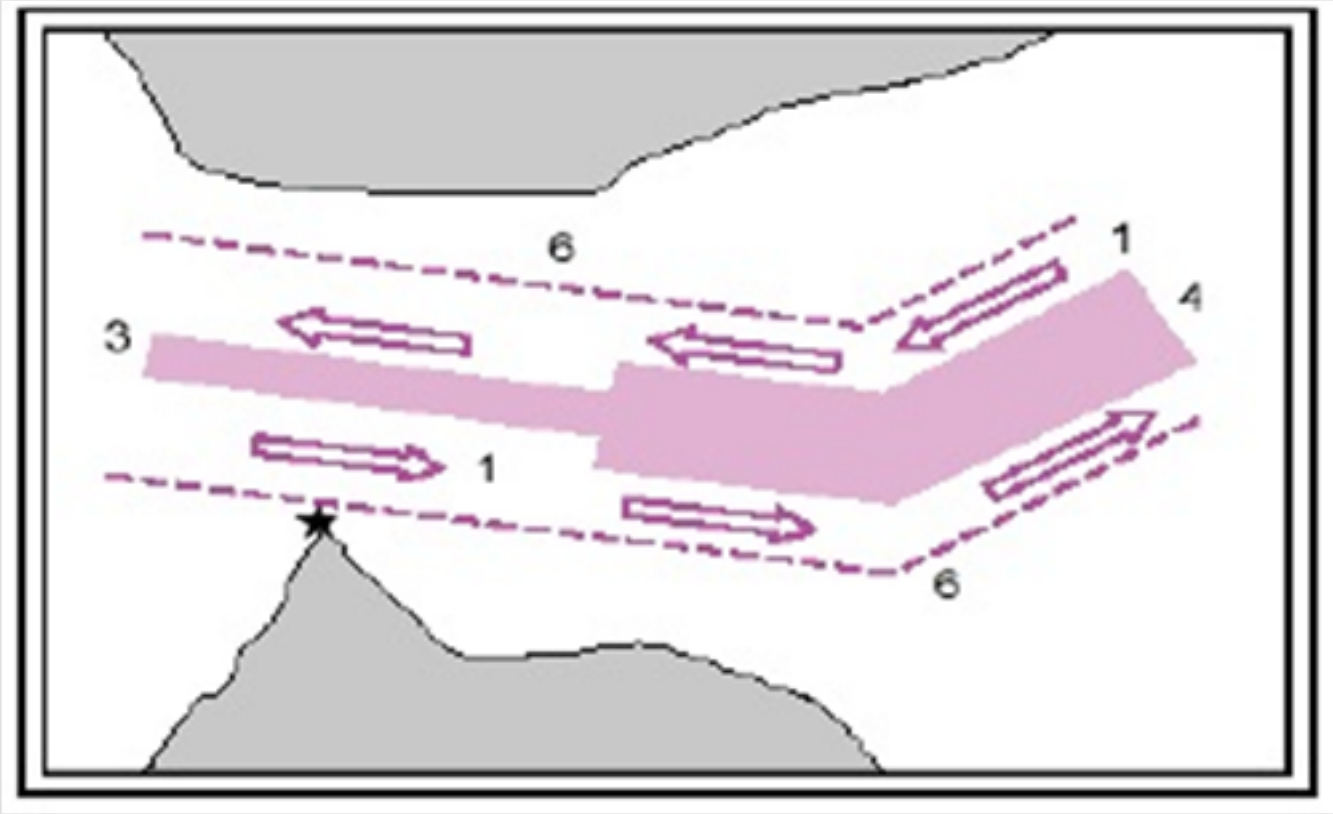

A. 環航區
B. 分道區
C. 避航區
D. 警戒區

(A) 8. 在限制水域內，兩船有追越關係，一旦發現受他船影響而生操縱異常但無立即危險時，應採取？
A. 立即停俥
B. 立即倒俥
C. 加速追越
D. 立即拋錨

(D) 9. 負責航行當值之航行員，下列何項為正確使用雷達的事項？
A. 不斷觀察雷達顯示器，藉微弱的回跡搜索目標作為定位之用
B. 在交通擁塞水域內航行不需全程使用雷達
C. 使用雷達要儘量利用同一測距來監視海面船舶的動態
D. 使用雷達應確保有充分的時間觀測或作有系統的分析

(A) 10. 下列敘述何者不符合無線電當值連同其發生時間應予記錄之事項？
A. 如適當時，每天至少 3 次之船位紀錄
B. 遇險、緊急及安全之無線電摘要
C. 無線電設備之狀況，包括其電源之摘要
D. 與無線電業務有關之重要事故

(D) 11. 為確保操舵系統與羅經維持正常運轉，下列何項敘述錯誤？
A. 確保人工舵或自動舵係依正確之航向行駛
B. 每次當值期間，以手動方式試驗自動舵至少一次
C. 人工操舵時，必須隨時核對舵角指示器
D. 重大轉向後，為能穩舵，不需要經常比對標準羅經及電羅經

(D) 12. 在船舶消防組織架構下，有關於最有效的船內應急通訊系統，在有條件下，船上的應急電源會向所有船內通訊設備持續供電若干小時?

A. 持續供電6小時
B. 持續供電10小時
C. 持續供電15小時
D. 持續供電18小時

(B) 13. 緊急情況下召集旅客至集合地點前應先發出警告音響，對於緊急信號聲響之下列敘述，何者正確?
A. 連續三長響聲後繼以三短聲
B. 連續七響聲或七響以上之短聲繼一長鳴
C. 連續五響聲或七響以上之短聲
D. 連續六響聲或六響以上之短聲

(C) 14. 對「裝載有害、危險、有毒或高易燃物或其他特殊型式貨物之船舶，可能需要特別之要求，船長應安排保持適當有效之在港當值」，此條文係規範於下列何海事相關規章中?
A. 我國「船員法」，第六章 航行安全與海難處理
B. 我國「船員服務規則」，第三章 船員職責
C. 航海人員訓練、發證及當值章程(STCW Code) A-VIII章
D. 海上人命安全國際公約（SOLAS 1974）附錄第V章

(D) 15. 下列那一項不是救助落水人員的救助艇（Rescue boat）上的必要基本設備？
A. 無線電通訊器材
B. 救援網（recovery net）
C. 救援梯（recovery ladder）
D. 雷達

(D) 16. 依據SOLAS公約規定，救助艇（Rescue boat）需要配置幾名船員，使其得以直接自儲放置放下或回收？
A. 2名
B. 3名
C. 4名
D. 根據該救助艇編制配置的員額人數

(C) 17. 下列何者不是影響船舶性能表現的要素？
A. 波浪
B. 風向
C. 氣溫
D. 風速

(D) 18. 天氣圖上等壓線所圍成的低氣壓，其氣壓值為？
A. 低於標準氣壓
B. 低於海平面的氣壓
C. 中心高，向外低
D. 中心低，向外高

(B) 19. 三胞環流中那些地區為上升氣流區？
A. 赤道地區與30°緯度
B. 赤道地區與60°緯度
C. 30°緯度與極區
D. 60°緯度與極區

(B) 20. 依據國際海上避碰規則Rule 8 Action to avoid collision的規則，If there is sufficient sea-room, alteration of course alone may be the most effective action to avoid a close-quarters situation provided that it is made in good time, is substantial and does not result in another close-

quarters situation.，要在何時行動才算是made in good time？
A. 良辰吉時
B. 越早行動越算是made in good time
C. 為了要避免製造另一個close-quarters situation，需算準特定時間點來轉向
D. 為了要產生sufficient sea-room，需挑一個好時間點來轉向

(D) 21. 依據國際海上避碰規則，If necessary to avoid collision or allow more time to assess the situation, a vessel shall slacken her speed or take all way off by stopping or reversing her means of propulsion，以下何狀況最適用此規定？
A. 橫越分道航行區的船
B. 大海中追越他船時
C. 沿岸航行對遇他船時
D. 進出港灣水道錨地時

(B) 22. 如下圖，夜間見到他船，展露三個號燈，請問是哪種船？

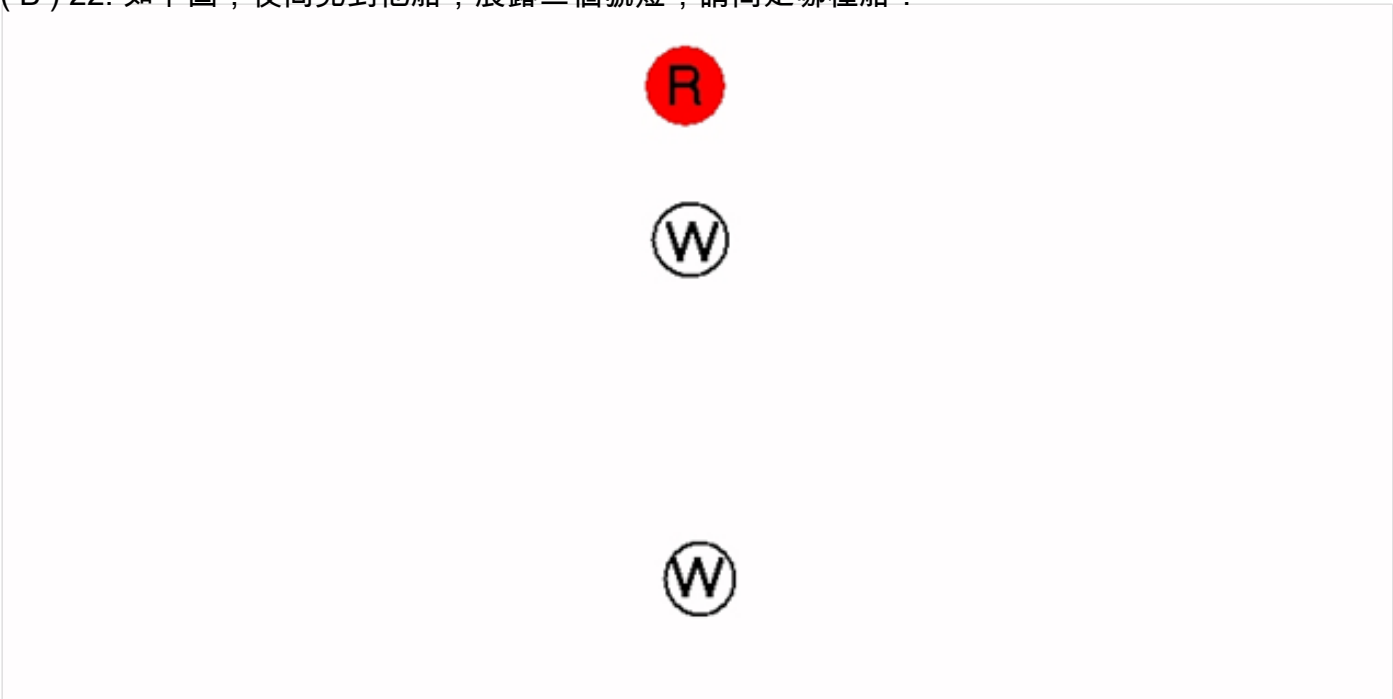

A. 從事拖網捕魚之船舶，在水面移動時
B. 除拖網捕魚外，從事捕魚中之船舶，在水面移動時
C. 操縱失靈之船舶，對水面仍有速度時
D. 運轉能力受限制之船舶，在水面移動時

(A) 23. 在能見度受限制之水域或其附近，於水面已停俥且不移動時之受吃水限制之船舶，不論晝夜，應於每不逾多少分鐘之時間，鳴放號笛三聲，以取代航行中之動力船舶，已停俥且在水面不移動時之運轉與警告聲號？
A. 二
B. 三
C. 四
D. 五

(D) 24. 在能見度受限制之水域或其附近，於水面已停俥且不移動時之從事捕魚之船舶，不論晝夜，應鳴放何種號笛，以取代航行中之動力船舶，已停俥且在水面不移動時之運轉與警告聲號？
A. 一短聲後，繼以一長聲
B. 一短聲後，繼以二長聲
C. 一長聲後，繼以一短聲
D. 一長聲後，繼以二短聲

(B) 25. 下列那一種狀況發生時，值錨更（Anchor Watch）的航行員不需向船長報告？
A. 錨位偏離
B. 錨鏈有規律地呈現鬆緊狀態
C. 能見度突然惡化
D. 不明船舶朝本船接近

(C) 26. 有關船舶繫泊當值，下列敘述何者正確？
A. 繫泊時如需調整纜繩，可以快速鬆出纜繩
B. 繫泊時，只需要鬆鬆帶住纜繩即可
C. 夜間無裝卸作業且已無人上下船時，可將舷梯收起
D. 可以在繫泊區排放污水

(C) 27. 對流層內溫度向上不減反增的一層稱之為？
A. 同溫層
B. 渦動層
C. 逆溫層
D. 均勻層

(C) 28. 船舶在淺水中航行，除了船艉附近跡流（Wake current）的影響是舵力下降的主因外，還有何因素？
A. 船尾附近的水壓較低
B. 船尾附近的水壓較高
C. 舵板下緣接近海底，致使流過下緣部份的水流遭遇整流作用
D. 舵板左、右的受力不均

(B) 29. 所有分派作為負責當值的甲級船員或組成當值部分的乙級船員，應在24小時內至少有10小時的休息時間，休息時間可以分段，但不超過幾段？其中一段至少要有多少小時？
A. 2段：5小時
B. 2段：6小時
C. 2段：7小時
D. 3段：5小時

(D) 30. 海空搜索與救助之搜索功能下，規範在適當之時機，應使用目視方式通信，下列敘述何者不在其內?
A. 國際信號代碼旗
B. 國際遇險信號
C. 信號燈
D. 以無線電報發送包含摩斯代碼(SOS)之信號

(B) 31. 鋒面系統在何處的能見度最好？
A. 冷鋒前
B. 冷鋒後
C. 暖鋒鋒際
D. 暖鋒後

(D) 32. 依據「動者恆動，靜者恆靜」原理，船舶本身有持續原狀態之性質，欲使其達成新狀態，必須經歷相當之過程，此種性質稱為？
A. 延續性
B. 滑行性
C. 流體力
D. 慣性力

(C) 33. 在船舶由引水人引航期間，船長之職責不包括下列何者？
A. 確保引水人登、離船之安全
B. 發現引水人操縱不當，必要時可終止其引航，改由自己操作或要求更換引水人
C. 要求當值船員完全依照引水人之口令執行任務
D. 提供引水人船舶特性資料

(A) 34. 台灣海峽冬季，東北季風聞名於世，產生強烈季風的原因為何？
A. 大陸高氣壓籠罩
B. 西伯利亞低氣壓群
C. 海陸溫差接近
D. 冷暖空氣交替

(B) 35. 航行中之船舶如果停止主機（Stop Engine）仍將持續其原運動狀態，但船速將逐漸下降以至於零。從停止主機開始到船速等於零時為止，船舶之航進距離稱之為何？
A. 縱距
B. 衝止距
C. 橫距
D. 慣性距

(C) 36. 長度70公尺之船舶，舷燈之最小能見距為多少浬？
A. 1
B. 2
C. 3
D. 4

(C) 37. 航行中之船舶，如發現有人落水，應即向落水人員附近丟下救生圈，同時以汽笛鳴放幾長聲之國際信號，以警告附近之船舶？
A. 1
B. 2
C. 3
D. 4

(A) 38. 熱帶海洋暖氣團的符號為下列何者？
A. mTw
B. mEk
C. mEw
D. mTk

(A) 39. 航行中，當值航行員接獲人員落水之通報時，應採取的第一項措施為何？
A. 啟動全船警報系統，並向落水人員之一舷側拋出救生圈
B. 立即停俥，並通知船長
C. 先通知船長至駕駛台坐鎮指揮
D. 採用滿舵方式向落水人員之一舷側迴旋

(D) 40. 夜間瞭望時，看到他船號燈顯示如附圖，應為下列何種船？

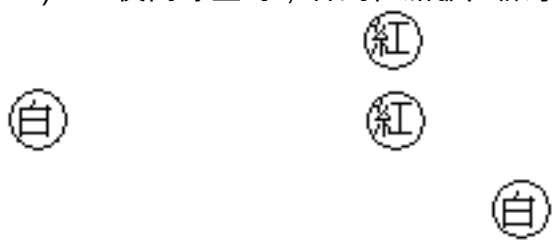

A. 長度未滿50公尺，操縱失靈船舶之左舷燈

B. 長度滿50公尺，操縱失靈船舶，對水面移動時
C. 長度滿50公尺，錨泊之船舶
D. 長度未滿50公尺，擱淺之船舶