107年第四次交通部航海人員測驗【601】二等船副【000017】船舶操作與船上人員管理概要

(A) 1. 一般大型油輪的結構佈置係採那種肋骨系統，下列何者為正確？
A. 縱向
B. 橫向
C. 垂向
D. 側向

(A) 2. 請問圖中所示為何種類型船艉？

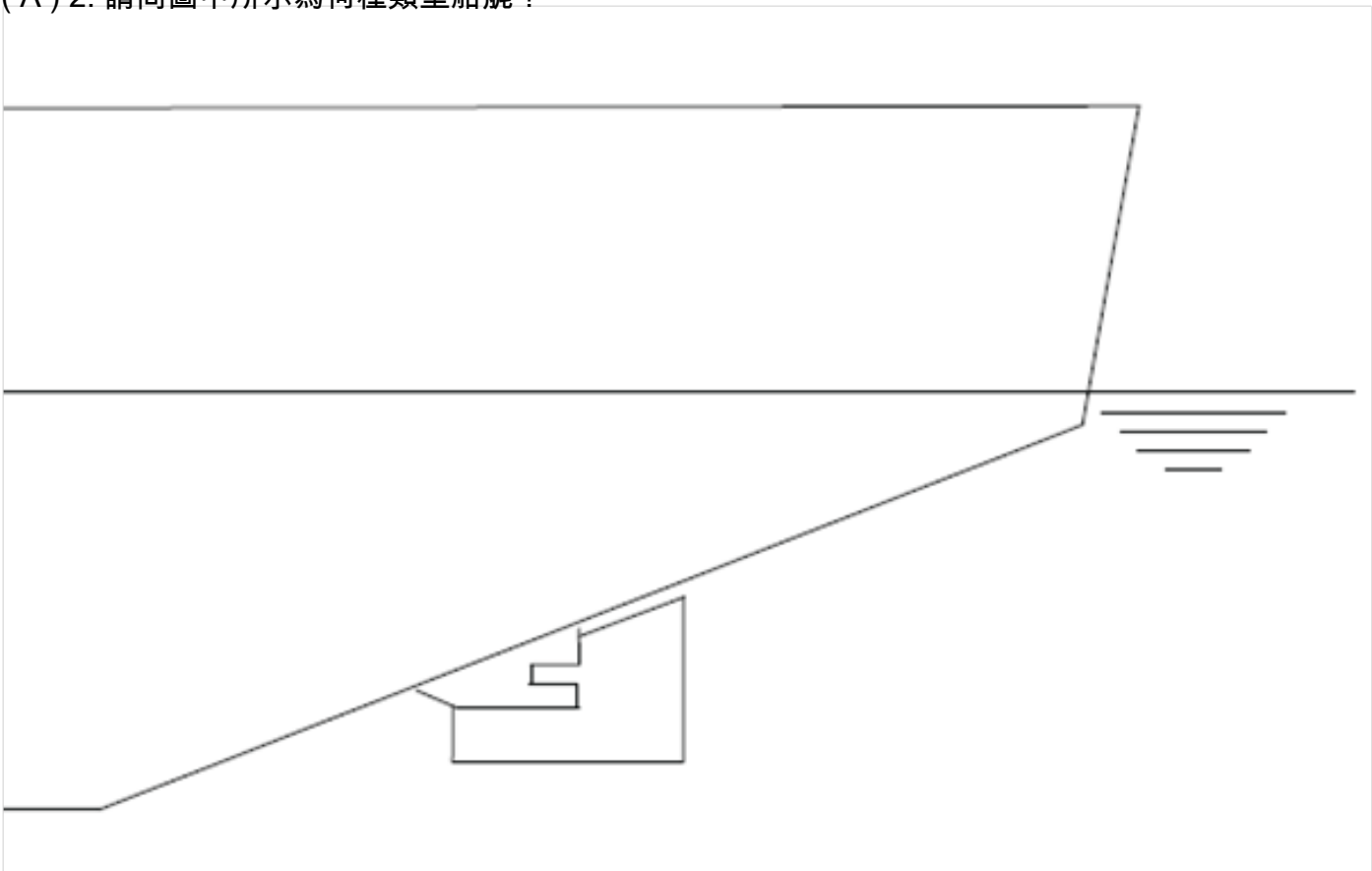

A. 方形艉
B. 巡洋艦型艉
C. 斜直艉
D. 垂直艉

(A) 3. 依MARPOL 73/78國際公約規定，下列哪一項不是原油洗艙作業紀錄簿所應記載之事項？
A. 作業時之航速
B. 洗艙方式
C. 洗艙管路壓力
D. 貨油艙之抽乾方法

(B) 4. 依MARPOL 73/78國際公約附則II規定，2007年1月1日以後建造之船舶應備有抽排與管路佈置，以確保裝載X、Y或Z類物質之液貨艙和相關管路的殘留液貨量不應超過幾公升？
A. 60
B. 75
C. 100
D. 150

(D) 5. 依MARPOL 73/78國際公約附則VI規定，船上連續進料型焚化爐的爐膛氣體出口溫度應超過多少攝氏溫度（℃）始得將廢棄物送入爐內？
A. 550

B. 650
C. 750
D. 850

(C) 6. 載重噸多少以上之新造原油船應裝置原油洗艙系統?
A. 載重噸5,000
B. 載重噸10,000
C. 載重噸20,000
D. 載重噸30,000

(D) 7. 船員應維護航行安全，不得為下列何種行為？
A. 不得有怠忽職責之行為
B. 不得有擅替值勤之行為
C. 不得有擅自離船之行為
D. 不得有危害船舶貨物之行為

(B) 8. 有關磁羅經自差簿、航海儀器記錄簿的保管並記錄，由下列何者負責？
A. 三副
B. 二副
C. 大副
D. 見習三副

(C) 9. 船副於航行當值時，因違反航行安全規章致船舶受創造成極嚴重損失時，應受下列何種處分？
A. 降級
B. 記大過
C. 回收船舶服務手冊三年
D. 警告

(D) 10. 「是存放錨鏈的水密空間，通常設置在防撞艙壁之前，錨機的下方的艏尖艙，在艙壁上有人孔及梯子便於人員進出，底部設有污水井及排水管路，可將錨鏈帶入的污水排出，以免錨鏈鏽蝕。」以上是在敘述哪項甲板設備？
A. 錨鏈筒
B. 錨鏈扣
C. 錨鏈管
D. 錨鏈艙

(B) 11. 依MARPOL 73/78國際公約附則I規定，下列哪一項有關證書之期限和有效性之敘述是正確的？
A. 證書之核發期限由主管官署定之，但不得超過六年。
B. 換證檢驗若於現有證書有效期限屆滿之日前三個月以內完成時，該新證書之有效期限應自換證檢驗日開始起算
C. 換證檢驗若於現有證書有效期限屆滿之日前三個月之前完成時，該新證書之有效期限應自現有證書期限屆滿日開始起算
D. 如換證檢驗之新證書未能在現有證書有效期限屆滿之日前核發，主管官署之授權人得在現有證書上簽証，並接受該證書自其屆滿日起算七個月以內繼續有效

(A) 12. 總噸位未滿400之非油輪在特別海域內之排洩限制，下列敘述何者正確？
A. 可以排放流出物之含油濃度少於15ppm者
B. 可以排放流出物之含油濃度少於30ppm者
C. 可以排放流出物之含油濃度少於60ppm者
D. 禁止排洩任何油類或含油混合物入海

(C) 13. 已裝設有殘油排放管路之現有油船，其小口徑排放管路的面積應為貨油主管截面積之多少倍?
A. 0.1倍
B. 0.15倍
C. 0.25倍
D. 0.4倍

(D) 14. 一艘總噸位30,000 之日本國籍船舶，固定航行於日本東京與台灣基隆間，試問其油料紀錄簿之記錄應以下列何種語文為之？
A. 只要日文即可
B. 只要英文即可
C. 日文與中文
D. 日文與英文

(D) 15. 依我國海洋污染防治法第27條規定，船舶對海洋環境有造成污染之虞者，得由下列哪一機關禁止其航行或開航？
A. 該海域之管轄縣市政府環保局
B. 環保署
C. 海巡署
D. 港口管理機關

(A) 16. 一般而言，比重大的貨物，其積載因素值應為何，下列何者為正確？
A. 小
B. 中
C. 大
D. 未定

(C) 17. 請問圖中甲處所指為何？

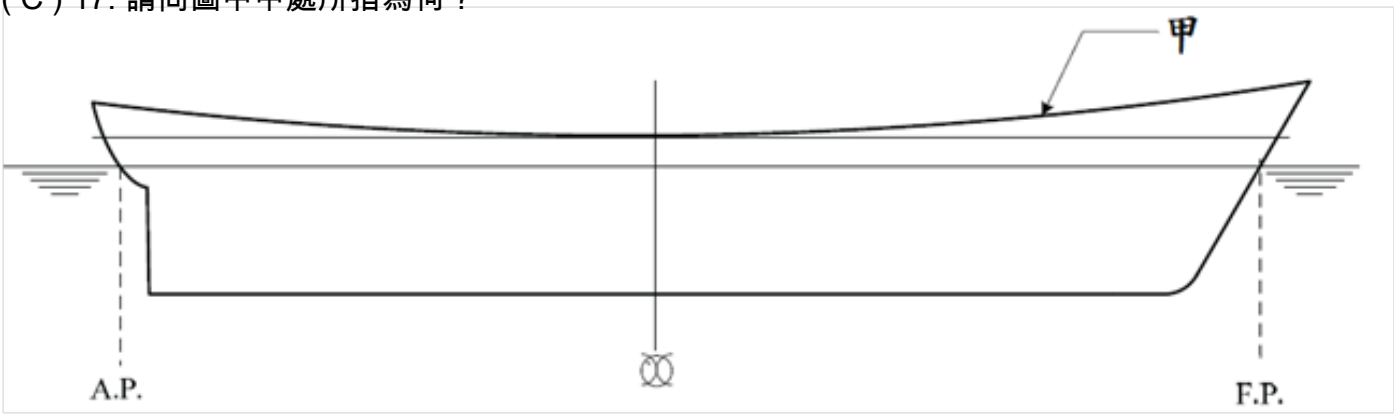

A. 艏緣高
B. 梁拱高
C. 舷弧高
D. 橫斜高

(C) 18. 下列何種方式裝設艙壁於液體艙櫃中，能有效減少裝載液體時產生的自由液面效應？
A. 艙櫃內設置橫向艙壁
B. 設置水平分隔艙壁，使原艙分隔成上下兩個艙
C. 艙櫃內設置縱向艙壁
D. 艙內不需要增加裝置艙壁，因無影響

(A) 19. 某遠洋貨輪經長途航行，因消耗燃料和淡水，艙櫃均非為滿艙而有自由液面效應影響，今由大海進入淡水港口，此效應會否因海水密度改變而不同？

A. 自由液面效應影響會略為加大
B. 自由液面效應影響會略為減小
C. 均受密度變化影響相同
D. 均不受密度變化影響

(A) 20. 設某船漂浮於海水中，船長100 m，船寬10 m，船深7 m，平均吃水5 m，方塊係數為0.9，試求船舶排水量為何？
A. 4613噸
B. 5125噸
C. 6458噸
D. 7175噸

(B) 21. 一般舵效，從一舷35◦轉到另一舷30◦所需的時間，應在幾秒以內？
A. 20
B. 28
C. 35
D. 38

(C) 22. 圖中所示為一載重線標誌(單位均為公厘mm)，請問圖中甲處線段長應是多少？

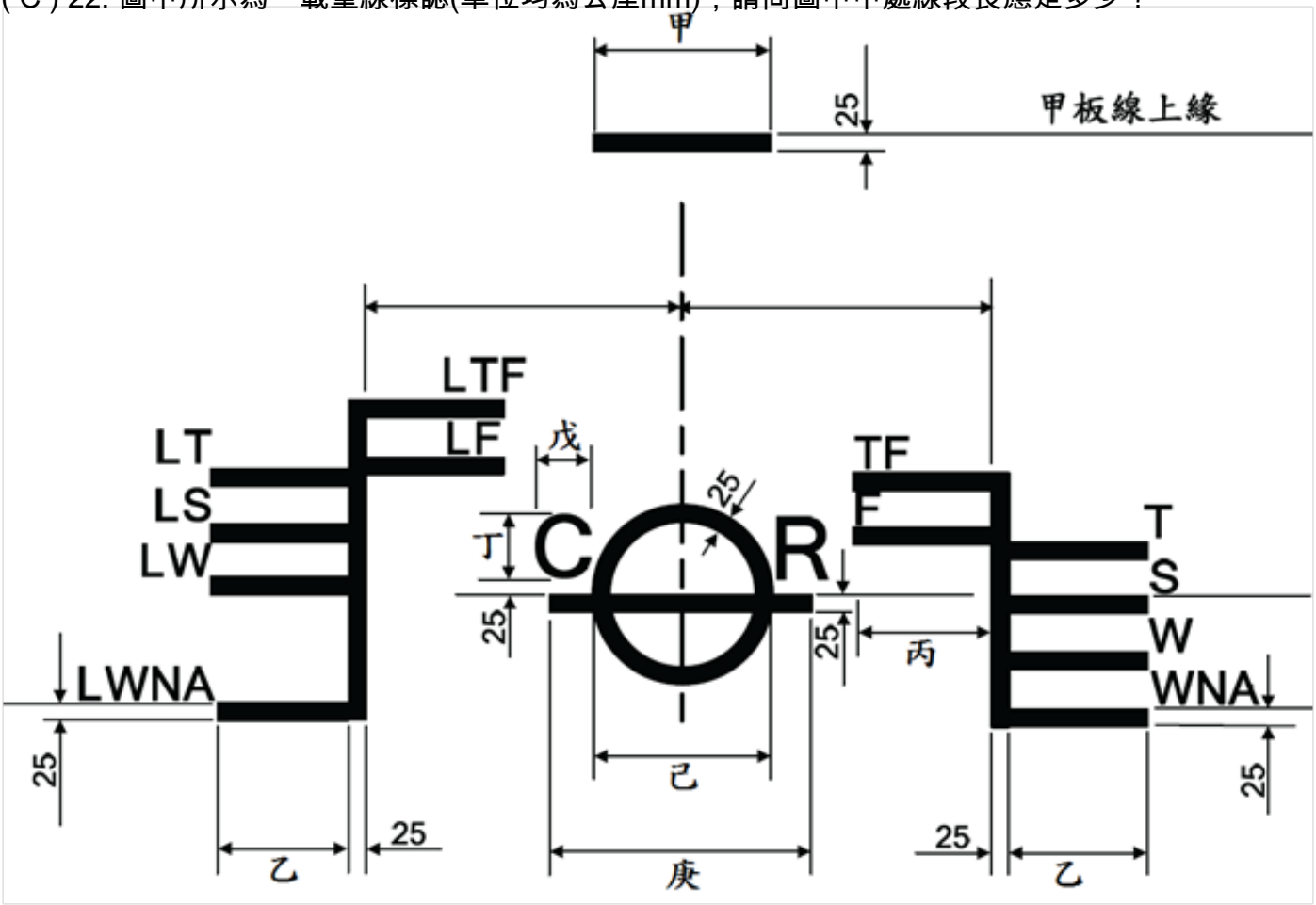

A. 200 mm
B. 250 mm
C. 300 mm
D. 350 mm

(A) 23. 甲輪進行補給燃油作業並記錄於油料紀錄簿中，請依此情況回答下列題目；請問此燃油作業應紀錄於哪個部分?
A. 油料紀錄簿-第一部分

B. 油料紀錄簿-第二部分
C. 油料紀錄簿-第一和第二部分
D. 油污染應急計畫

(B) 24. 依據MARPOL 73/78，船舶在地中海距最近陸地12浬以外海域時，下列何者可拋棄入海？
A. 人造纖維漁網及塑膠垃圾袋
B. 食物廢棄物
C. 紙製品、破布
D. 會漂浮於海面之墊板、襯料或包裝材料

(B) 25. 船上必須有一救生部署表，部署表應表明分配給每一船員的職務，但是不包括下列哪一個項目?
A. 旅客之召集
B. 保全設備之位置與操作程序
C. 通信設備之使用
D. 其他救生設備之一般準備

(D) 26. 依據SOLAS 1974公約及其修正案規定，所有的救生艇筏、救難艇和下水設備，每週應進行的例行測試和檢查，不包括以下哪一個項目?
A. 目視檢查，以確保該設備可立即使用；
B. 救生艇和救難艇引擎應運轉三分鐘以上；
C. 救生艇筏及下水設備或其附近應備有標語及操作指示標誌；
D. 船舶自動識別系統(AIS)的檢查。

(A) 27. 依據SOLAS公約附錄規則第九章，公司應將船長的責任與職權予以明定，並文件化，請問下列哪一個項目是錯誤的?
A. 船長有公司經營節約成本之責任；
B. 船長應以簡潔的方式，發佈適當之命令與指示；
C. 船長應定期審查安全管理制度，並將其缺點向公司管理部門報告；
D. 船長負有鞭策及激勵船員遵守安全及環保政策的責任。

(B) 28. 臨時安全管理證書(Interim SMC)，有效期間不得超過幾個月?
A. 三個月
B. 六個月
C. 九個月
D. 十二個月

(A) 29. 有關港口國管制(Port State Control)檢查法源之依據，以下何者為真?
A. 依據國際海事組織(IMO)的相關公約
B. 依據聯合國工業發展組織(UNIDO)的相關公約
C. 依據聯合國氣候變化綱要公約（UNFCCC）
D. 依據聯合國教育及科學及文化組織(UNESCO)的相關公約

(C) 30. 執行港口國管制時，關於明顯證據(Clear grounds)的定義，以下何者為非?
A. 船長不熟悉有關防止海水污染等重要程序的情況；
B. 船員不熟悉有關船舶安全等重要程序的情況；
C. 船長外出不在船，無法配合檢查時；
D. 船舶設備與有關公約之規定發生實質上的不符合。

(D) 31. 港口國管制檢查流程中，不包括以下哪一項?
A. 在依據各備忘錄與選船原則選擇受檢船舶；
B. 登輪初步檢查 - 證書檢查、船舶適航狀況等
C. 若無明顯不符證據，僅一般缺點提出解決方法後，檢查結束；

D. 一旦發現明顯不符證據，應立即扣船。

(C) 32. 依MARPOL73/78國際公約規定，下列何者是在任一國家沿岸從事海床探勘與開採之固定平台的主管官署？
A. 締約國政府
B. 港口國政府
C. 沿海國政府
D. 船旗國政府

(B) 33. 下列何種圖比較集中呈現船舶的用途、任務和經濟性？
A. 外板展開圖
B. 總佈置圖
C. 舯剖面圖
D. 容積圖

(C) 34. 依船舶載重線國際公約，船艢長度（S）是指船長（L）內船艢之下列何種長度？
A. 最大長度
B. 最小長度
C. 平均長度
D. 船長之一半長度

(A) 35. 船舶經特別檢查後，於每屆滿一年之前後幾個月內，應申請施行定期檢查？
A. 3
B. 4
C. 5
D. 6

(B) 36. 依據裝貨慣例，為使船舶具有適當穩度，具有二層艙之船舶的下大艙貨物大約應佔全部貨量之多少比例？
A. 三分之一
B. 三分之二
C. 二分之一
D. 五分之四

(A) 37. 至少在一特高頻（VHF）海岸電台無線電話通信範圍內，可連續使用數位選擇呼叫（DSC）遇險警報之海域為下列何者？
A. A1
B. A2
C. A3
D. A4

(A) 38. 某船船副觀測水尺後，得知艏吃水為7公尺，舯吃水為7公尺20公分，艉吃水為7公尺70公分，該船船體有何變化？
A. 舯拱
B. 舯垂
C. 縱平浮
D. 左右傾斜

(D) 39. 依MARPOL 73/78國際公約附則III規定 ，「有害物質」是以下列何者所認定者為基準？
A. 國際安全管理章程（ISM Code）
B. 國際散裝化學品章程（IBC Code）
C. 散裝化學品章程（BCH Code）
D. 國際海上危險品載運章程（IMDG Code）

(C) 40. 依STCW公約執行無線電當值規定，船長應依下列何種規定決定無線電當值安排？
A. 依公司之規定
B. 依各地港口之規定
C. 依無線電規則及SOLAS國際公約有關規定
D. 依STCW公約有關規定