108年第三次交通部航海人員測驗【601】二等船副【000016】貨物作業概要

(B) 1. 下列何者屬於具有放出水蒸氣促使貨艙出汗的吸濕性貨物?
A. 蔬菜
B. 羊毛
C. 菸草
D. 大豆

(B) 2. 貨艙容積自一舷肋骨之外緣至他舷肋骨之外緣；自艙底板頂端至甲板樑之上緣之空間，稱為下列何者？
A. Bale Capacity
B. Grain Capacity
C. Dunnage Capacity
D. Hatch Capacity

(C) 3. 冷藏貨物裝載前的預冷（Precooling）和裝貨溫度的比較，下列何者正確？
A. 預冷溫度比裝貨溫度高2℃～3℃
B. 預冷溫度比裝貨溫度高6℃～7℃
C. 預冷溫度比裝貨溫度低2℃～3℃
D. 預冷溫度比裝貨溫度低6℃～7℃

(A) 4. 某船有一貨艙容積500立方公尺，該艙裝滿貨，實際只裝了450立方公尺的貨物，問該批貨物貨載空隙（Broken Stowage）為多少？
A. 10%
B. 11.5%
C. 12.5%
D. 13%

(D) 5. 船舶穀物裝載，未平艙之滿載艙間，裝載方法，下列何者正確？
A. 穀物依艙口前後裝滿
B. 穀物依艙口橫向裝滿
C. 穀物依艙口裝至最大範圍
D. 穀物依艙口裝至最大範圍且外圍裝至最大止滑角

(B) 6. 當船舶航行於海中而產生橫搖時，由於兩舷吃水不一樣，因此作用於兩舷之水壓力亦非相同，致使船體產生一橫向之變形，該應力稱之為?
A. 拍底應力(Pounding Stress)
B. 橫向變形應力(Racking Stress)
C. 海浪衝擊應力
D. 拍擊應力(Panting Stress)

(A) 7. 下列那一項並非是貨櫃船完成配載圖(Final Bay Plan)一般組成單元？
A. 出口貨櫃順序表
B. 貨櫃裝船統計表
C. 貨櫃實際Bay位置圖
D. 危險櫃資料表(D.G. Cargo List)

(B) 8. 船舶裝載穀物過程中，計算之船舶常數值較平常數值高時，主要影響為何？
A. 船舶攜帶的貨物重量增加
B. 船舶的載貨量低，影響運費
C. 減輕船舶負載重量
D. 船舶的油水量增加

(C) 9. 穀類船航行儘量減少未裝滿艙之情況，以期減少下列那種數值？

A. 船舶強度
B. 船舶穩度
C. 傾側力矩
D. 裝卸費用

(A) 10. 下列那一項不包含在貨櫃船之裝載計劃內？
A. 準備完成通知書(Tender Notice of Readiness)
B. 製作出口貨櫃順序表(Export Sequence Sheet)
C. 製作貨積圖(Stowage Plan)
D. 製作預配貨積圖(Pre-Stowage Plan)

(D) 11. 塔型旋轉台裝於艙與艙間之基座上，旋轉台可作幾度旋轉將貨物吊起後直接轉至碼頭或艙口予以放下？
A. 90
B. 180
C. 270
D. 360

(C) 12. 浮在水面的船舶，如圖中所示之 F 距離稱之為何？

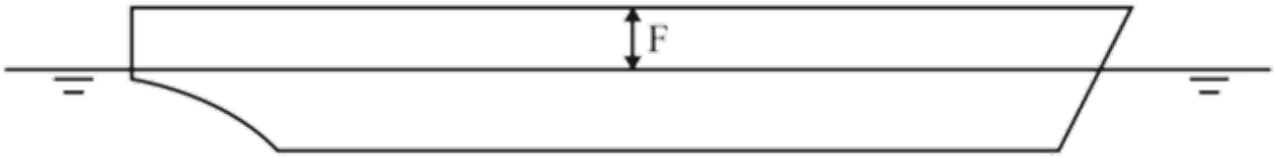

A. 吃水
B. 船深
C. 乾舷
D. 船寬

(D) 13. 依據國際海運危險品準則的定義，硫酸屬於下列何類危險貨物？
A. 第2類
B. 第4類
C. 第6類
D. 第8類

(D) 14. 在國際海運危險品準則第2冊危險貨物一覽表後面的索引第2欄位中，標示"p"的物質係指下列何者？
A. 易燃物
B. 爆炸物
C. 放射性物質
D. 海洋污染物

(A) 15. 依據國際海運危險品準則的規範，下列哪一標籤係標記腐蝕性物質？

A.

B.

C.

D.

(D) 16. 當船舶受外力而傾側時船體之浮力與重力所形成之一種力距具有使船體繼續傾側之趨勢以致翻覆，此力距稱為下列何者？
A. 浮心力距
B. 重心力距
C. 扶正力距
D. 傾側力距

(D) 17. 罐頭和水果裝載時，最少的隔離條件為何？
A. 可混裝
B. 不相鄰
C. 不同室
D. 不同艙

(B) 18. 在統艙中裝載不相容危險貨物需要隔開（Separated Form）時，兩貨物至少如何隔離？
A. 分開3 公尺
B. 不同艙
C. 中間間隔1個艙
D. 中間間隔2個艙

(C) 19. 袋裝貨物的縱橫壓縫堆疊（如圖），下列何者不是其特點？

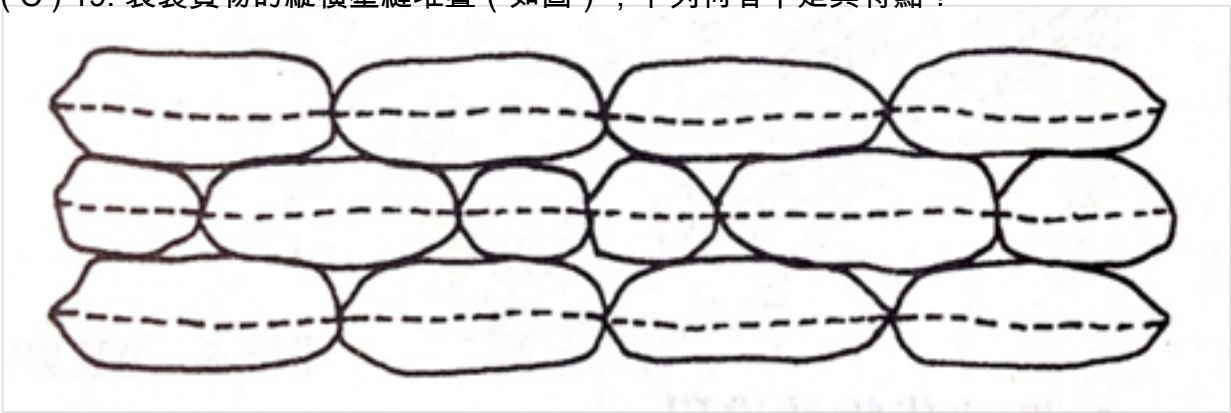

A. 操作複雜
B. 堆疊最為穩固
C. 便利通風
D. 用於堆疊頭部

(D) 20. 散裝液化船殘存不能排放入海之有毒液態物質(NLS)殘留物，應據實登錄於何種文件？
A. 液貨配載圖(Cargo plan)
B. 機艙日誌(Engine Log Book)
C. 油料紀錄簿(Oil Record Book)
D. 液貨紀錄簿(Cargo Record Book)

(B) 21. 下列有關定穩定中心高度（GM）的敘述，何者不正確？
A. GM 太大，船舶太過剛性（Too Stiff）
B. GM 趨近零，船舶搖擺週期短
C. GM 值很小，船舶太柔性（Too Tender）
D. GM 值約1公尺，穩定度適宜

(C) 22. 下列有關飽和水蒸氣(vapor)的敘述，何者不正確？
A. 溫度上昇時，飽和水蒸氣量上昇
B. 溫度下降時，飽和水蒸氣量下降
C. 飽和水蒸氣和溫度無關
D. 一定溫度下所含水蒸氣量最大值稱為飽和水蒸氣量

(A) 23. 下列何種不是通風換氣的目地？
A. 升高艙內露點
B. 提供新鮮空氣
C. 降低艙內貨溫
D. 排除有害氣體

(B) 24. 船舶短途運送新鮮肉類所需的儲存方式是什麼？
A. 凍結（Frozen）
B. 冷溫（Chilled）
C. 涼溫（Cooler）
D. 常溫

(B) 25. 散裝船裝卸其裝卸載計畫(Cargo plan)及裝卸載速率(Rate)及程序經同意後如需更動，需經過何單位諮詢同意後，才能執行？
A. 港口國主管機關(Authority of Port state)與船長
B. 船長及終端站代表(Terminal representative)
C. 船長與受貨人(Consignee)
D. 受貨人(Consignee)、船長及終端站代表(Terminal representative)

(C) 26. 圖中(?)貨艙結構的名稱為何？

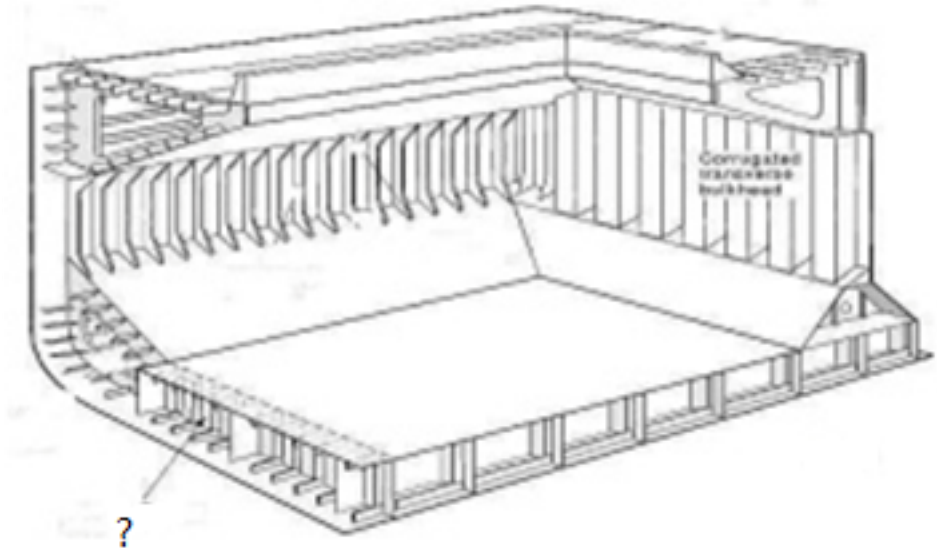

A. Topside Tank
B. Hopper Tank
C. Double Bottom Tank
D. Side Shell Frames

(B) 27. 下列何種船舶之貨艙之艙口最大？
A. 汽車船 (vehicle carrier)
B. 貨櫃船 (container ship)
C. 雜貨船 (general cargo ship)
D. 散裝船 (bulk carrier)

(C) 28. 貨櫃船配置之風雨密(Weathertight)艙蓋，艙口圍緣(Hatch Coaming) 至少？
A. 400mm
B. 500mm
C. 600mm
D. 700mm

(B) 29. 依據國際海運危險品準則的規範，第一類危險貨物的積載位置遠離「易燃物儲藏室」之水平距離至少應有幾公尺？
A. 5公尺
B. 6公尺
C. 7公尺
D. 8公尺

(D) 30. 國際海運危險品準則之「船舶載運危險貨物緊急措施指南」，係針對火災及洩漏事故分別提出建議，試問下列何項不包括於其建議事項中？
A. 緊急措施概述
B. 一般準則
C. 緊急措施
D. 棄船程序

(B) 31. 下列何者為貨物裝船後，可以其向輪船公司換領提單？
A. 裝貨單
B. 收貨單
C. 裝卸貨物單

D. 裝卸日報表

(C) 32. 長150m，寬20m之箱型船，以10m之平均吃水浮於比重1.025之海水中，由艏之船艙將150Tons之貨物向艉移動80m，若該船之KG為8m，求艏之新吃水為多少公尺？
A. 10.46
B. 10.86
C. 9.84
D. 9.94

(B) 33. 依據國際海運危險品準則（IMDG CODE）規定，除非受限於包裝的形式或大小，否則包裝上標誌的規格不應小於多少尺寸？
A. 50 mm×50 mm
B. 100 mm×100 mm
C. 150 mm×150 mm
D. 250 mm×250 mm

(D) 34. 在船舶作傾側試驗中，當一重物25噸在甲板上橫移15公尺，船舶排水量8,000噸，鉛垂線長4公尺，偏離20公分，若KM為7公尺，求KG是多少公尺？
A. 4.56
B. 5.06
C. 5.56
D. 6.06

(D) 35. 1974年海上人命安全國際公約（SOLAS 1974）對於「包裝或散裝固體形式危險貨品之載運」一章中之規定，係適用於下列何種船舶？
A. 總噸位300以上之油品運輸船
B. 總噸位500以上之船舶
C. 載運包裝、散裝固體形式危險品之船舶
D. 適用現行規則之所有船舶及總噸位未滿500而載運包裝、散裝固體形式危險品之船舶

(C) 36. 若某種貨物每立方公尺重2000公斤，試問其裝載因素（S.F.）為何？
A. 5立方公尺/公噸
B. 2立方公尺/公噸
C. 0.5立方公尺/公噸
D. 0.2立方公尺/公噸

(A) 37. 在燻艙前至少幾分鐘，除留守人員以外，所有船員均應離開船舶？
A. 三十
B. 四十五
C. 五十五
D. 六十五

(A) 38. “貨物標誌”之功用為何？
A. 方便貨物作業
B. 投保保險
C. 計算運費
D. 方便安全檢查

(B) 39. 依據海上人命安全國際公約（SOLAS）第VII章危險品之載運中，將危險貨物分為九大類，請問下列何者為第三類？
A. 易燃氣體
B. 易燃液體
C. 易燃固體

D. 腐蝕性物質

(C) 40. 船舶運送既重且大之物件時，應特別注意下列何種事項？
A. 穩定中心高度和吃水差
B. 局部強度和吃水差
C. 穩定中心高度和局部強度
D. 穩定中心高度和縱向強度