108年第四次交通部航海人員測驗【301】一等船副【000004】貨物作業

(C) 1. IMDG Code中所提及之「中型散裝容器(IBC)」，係指一種硬性、半硬性或軟性的可移動散裝容器，可用機械設備裝卸，並經測試能夠承受在裝卸和運送過程中所產生的各種應力，試問其裝載容量最大為何？
A. 1立方公尺
B. 2立方公尺
C. 3立方公尺
D. 4立方公尺

(A) 2. IMDGCode之「危險貨物一覽表」某一欄位標示著"0317"，試問該欄位可能為下列何者？
A. 第1欄位
B. 第2欄位
C. 第3欄位
D. 第4欄位

(B) 3. 艏吃水較淺之船舶，在波浪中航行而產生縱搖時，艏底露出水面再拍打水面之現象稱之為艏拍底，其應力為何種應力？
A. Panting stress
B. Pounding stress
C. Pitching stress
D. Racking stress

(C) 4. 下列何種貨物，不易放出水分但容易吸收水分而變質？
A. 穀類
B. 果實
C. 麵粉
D. 大豆

(D) 5. 下列何種貨卸載後再裝新貨物，貨艙不需要經脫臭的程序？
A. 胡椒
B. 樟腦
C. 生皮
D. 糖蜜

(A) 6. 下列何者不是貨艙常使用墊材的材料？
A. 塑膠製品
B. 木材
C. 竹製品
D. 帆布

(C) 7. 國際海運散裝固體貨物規則（IMSBC Code）從哪一年1月1日正式生效？
A. 2009
B. 2010
C. 2011
D. 2012

(B) 8. 貨櫃船Bay Plan內每一貨櫃位置圖均有資料如附件圖示2右中間英文字母RF 是何意義?

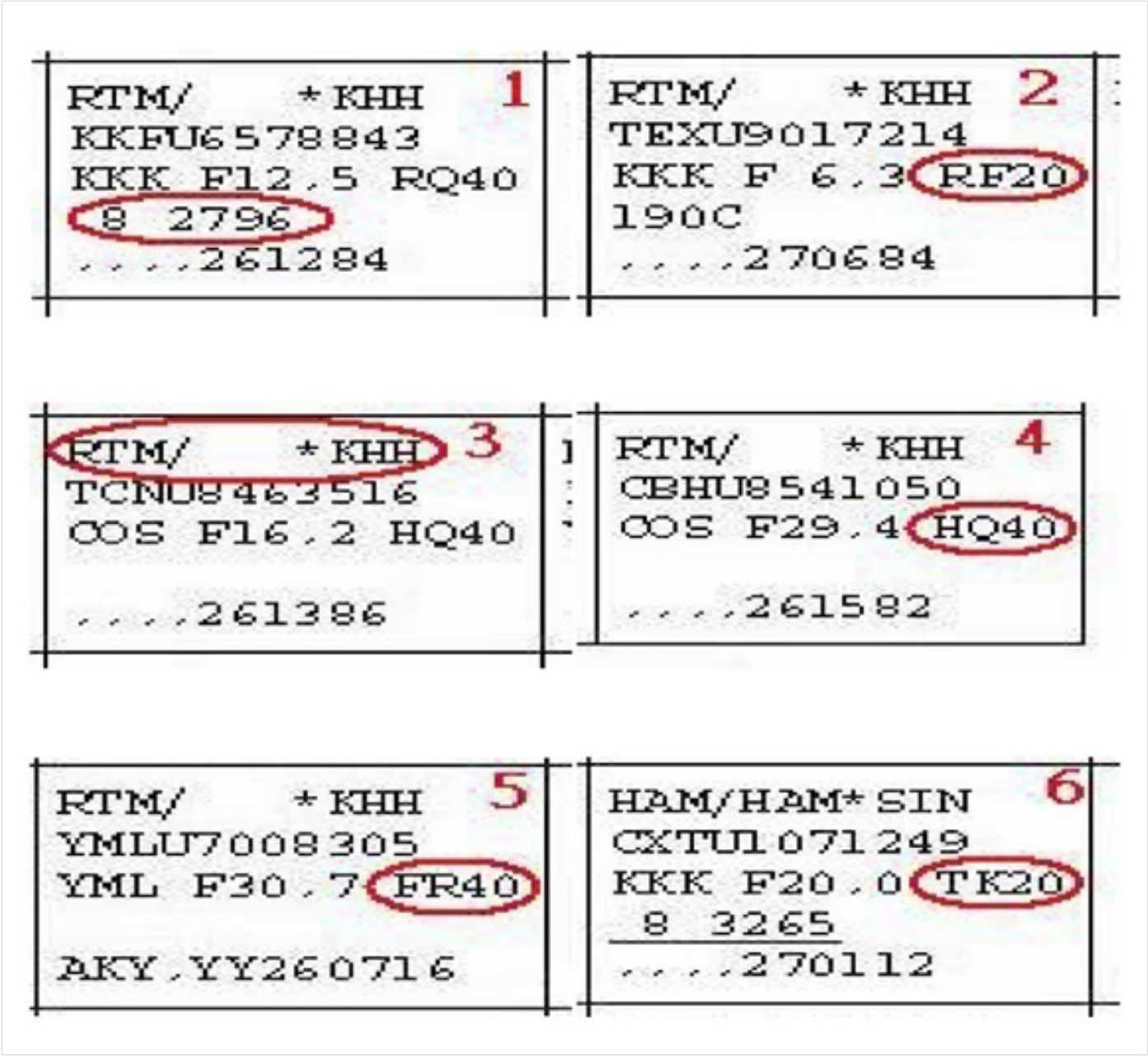

A. 危險櫃
B. 一般冷凍櫃
C. 超高櫃
D. 平板櫃

(A) 9. IMDGCode之「危險貨物一覽表」第10欄位係標示“IBC Instructions”，下列何項標示不正確？
A. B2
B. IBC
C. IBC20
D. IBC99

(D) 10. 載重線標誌上S字母其代表意義為何？
A. 夏季淡水載重線
B. 熱帶載重線
C. 熱帶淡水載重線
D. 夏季載重線

(B) 11. 船長未滿100公尺之船舶載重線中，季節載重線總共有幾種？

A. 5
B. 6
C. 7
D. 8

(C) 12. 下列何者之宗旨係保障載運危險貨物之安全，且其亦是防止海洋污染的重要執行依據？
A. ISM Code
B. ISPS Code
C. IMDG Code
D. IMSBC Code

(C) 13. 下列何者為目前穀類貨物之主要輸送工具？
A. Auto Crane
B. Portal Crane
C. Pneumatic Conveyor
D. Jib Crane

(D) 14. 下列有關定穩定中心高度（GM）的敘述，何者不正確？
A. GM值3公尺，船舶太過剛性（Too Stiff）
B. 剛性船（Too Stiff），船舶搖擺週期短
C. GM 值很小，船舶太柔性（Too Tender）
D. 柔性船（Too Tender）復原力距大

(C) 15. 只利用船艙所裝設的通風筒或艙口，圖中的通風換氣法，是屬於何種方法？

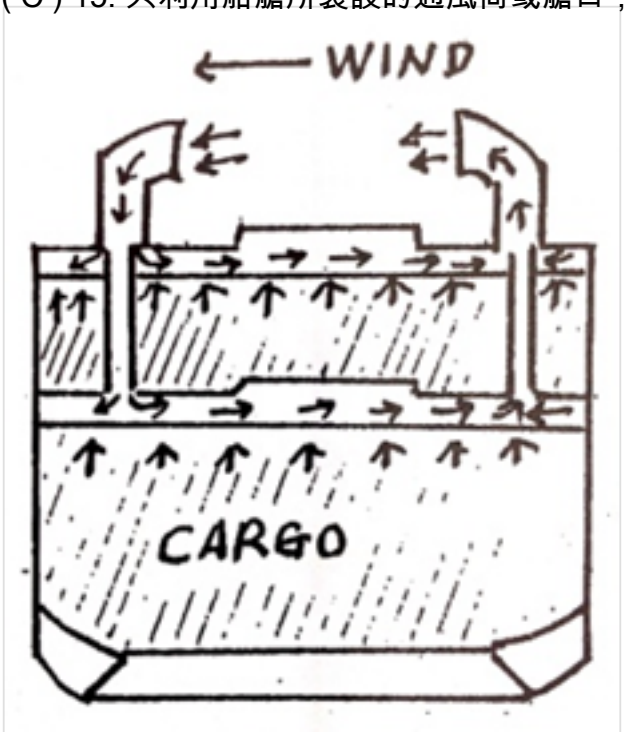

A. 循環通風法
B. 密閉通風法
C. 表面通風法
D. 機械通風法

(C) 16. 穀物的運送上，高粱屬於較重穀物，貨物運載做法為何？
A. 為降低重心各艙保持一樣載貨高度
B. 靜止角較小，貨物高度儘量勿滿艙
C. 為減少自由液面儘量滿艙
D. 靜止角較小，貨物不易移動

(B) 17. 下列那一項非強力塑膠面合板貨櫃之優點?
A. 內部容積較大
B. 使用壽命較長
C. 保養費用中等
D. 製造成本中等

(B) 18. 散裝船裝載時，應定時查看船舶吃水確認船舶裝載進度及數量，亦經常性與終端站重量表(Weight maters)核對，尤其當船貨接近收艙(Trimming)時。因此，終端站重量表(Weight maters)須提供精準度(Accuracy)為何？
A. 0.5%以內
B. 1.0%以內
C. 1.5%以內
D. 2.0%以內

(D) 19. 檢查員從事船舶壓載水艙結構檢測，應先檢視何者？
A. 檢視腐蝕(Corrosion)及陰極保護陽極(Anode)現況
B. 在前尖艙(FPT)應注意防碰艙壁至外板之縱向加強材及支架現況
C. 壓水艙內連接平面甲板下緣縱向材內緣焊接縫隙損耗現況
D. 檢視艙內氧氣含量及個人裝備

(A) 20. 下圖中G、B、M各自代表何種意義？

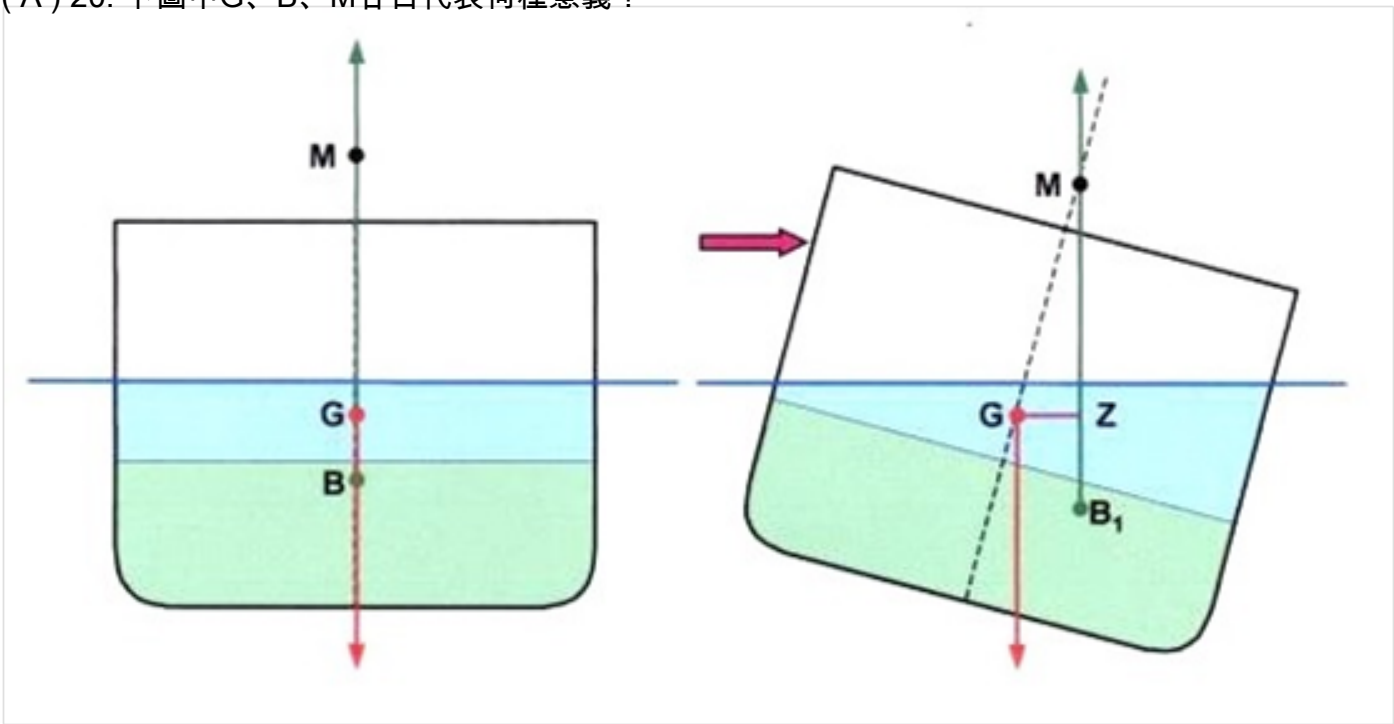

A. G是重心、B是浮力中心、M是定傾中心
B. G是浮力中心、B是定傾中心、M是重心
C. G是定傾中心、B是浮力中心、M是重心
D. G是重心、B是定傾中心、M是浮力中心

(A) 21. 積載因素(stowage factor) 簡稱S.F. 是指下列何者？
A. 每一公噸所佔有之立方公尺體積
B. 每一立方公尺體積所佔有之公噸
C. 每一公斤所佔有之立方公尺體積
D. 每一公噸所佔有之平方公尺體積

(D) 22. 地帶及季節性區域圖，將全球之水域分成幾個季節區?
A. 夏季、寒帶、秋季
B. 夏季、寒帶、冬季
C. 夏季、熱帶、秋季
D. 夏季、熱帶、冬季

(B) 23. 船體在波浪中所產生運動，下列那一項不是轉動運動？
A. 平擺(Yaw)
B. 起伏(Heave)
C. 縱搖(Pitch)
D. 橫搖(Roll)

(C) 24. 為充分利用裝卸機具以及艙口空間，以達到最好的港口裝卸速率，與下列何者無關？
A. 注意港口順序
B. 配合裝卸設備
C. 調大船舶穩度
D. 避免貨物翻艙

(C) 25. 有關載重線標誌之敘述，下列何者正確？
A. 各載重線長度為30公分
B. 載重線圖係由一外徑30公分之圓圈，與一長40公分之水平橫線組合而成
C. 夏季載重線位於熱帶載重線之下方
D. 熱帶載重線位於熱帶淡水載重線之上方

(C) 26. 依船舶危險品裝載規則規定，硫酸以液體船裝載時，依規定比重未滿多少之硫酸，不得以液體船裝載，但比重滿1.705，經航政主管機關許可者，不在此限？
A. 1.6125
B. 1.7125
C. 1.8125
D. 1.9125

(A) 27. 穀類裝載時，安排各艙裝載順序，應使水尺差隨時保持如何，以便卸載壓艙水順利？
A. 保持艉重
B. 保持縱浮平
C. 保持艏重
D. 保持不變

(B) 28. 貨櫃繫栓屬具中，用來連接固定裝置，並且可以旋轉手輪有收緊作用之屬具為何？
A. 延長桿（Extension bars）
B. 伸縮螺絲扣（Turnbuckles）
C. 繫栓套（Lashing plugs）
D. 定位鎖座（Positioning cone bases）

(B) 29. 下列穩定中心高度（GM），不良的原因中，何者不是船員可以控制？
A. 貨物的配置不當
B. 船舶設置不當
C. 燃油配置不當
D. 壓艙水配置不當

(D) 30. 貨方提供船方的積載因素通常為下列何者？
A. 指每一噸貨物所占的貨艙容積
B. 指每一噸貨物所占的實際體積
C. 指每一噸貨物所占實際的立方公尺加上裝載損耗

D. 指每一噸貨物所占的立方體積之平均數

(B) 31. 裝載液體貨物時儘量少留部分裝載艙，其自由液面對穩度之影響，下列何者正確？
A. 有利於增加自由液面對穩度之影響
B. 有利於減小自由液面對穩度之影響
C. 與自由液面對穩度之影響沒有關係
D. 對穩度之影響需依據具體情況確定

(B) 32. 散裝船裝運煤貨（Coal cargo）時，應採取那種通風方式？
A. 循環通風
B. 表面通風
C. 先表面通風，再循環通風
D. 先循環通風，再表面通風

(B) 33. 下列何者為貨艙通風的基本原則？
A. 外界空氣的露點溫度低於艙內的露點溫度時，應停止通風
B. 外界空氣的露點溫度高於艙內的露點溫度時，應停止通風
C. 外界空氣的露點溫度低於艙內的露點溫度時，先停止通風再進行通風
D. 外界空氣的露點溫度高於艙內的露點溫度時，應進行通風

(B) 34. 船上所載運之危險貨物發生火災及洩漏事故時，所採取緊急措施應依據下列何者？
A. MFAG
B. EmS Guide
C. BC Code
D. IMSBC CODE

(D) 35. 合併資料板（Consolidated data plate）上，標示該櫃之何種資料？ ①該櫃檢驗機構之標誌 ②檢驗所依據之規定 ③檢驗者姓名 ④試驗日期及編號
A. ①②③
B. ②③④
C. ①③④
D. ①②④

(A) 36. 為防止污水槽發出之臭味污染到食料貨物或使鋼鐵貨生銹，在洗艙掃艙後再用泥水（Cement wash）清洗一次，等乾燥後再於污水槽內壁塗上一層下列何種物質？
A. 石灰水
B. 水泥水
C. 快乾漆
D. 紅丹

(A) 37. 散裝船裝運煤貨（Coal cargo）時，其釋放出來的煤氣，主要成分為下列何者？
A. 甲烷
B. 乙烷
C. 丙烷
D. 丁烷

(B) 38. 國際海事固體散裝貨物章程將散裝物質（Bulk material）分成幾大類？
A. 二
B. 三
C. 四
D. 五

(A) 39. 商船上貨物繫固設備之最大繫固負荷（Maximum securing load）係由其材料的裂斷強度決

定，則重覆使用之鋼絲索的最大繫固負荷為其裂斷強度的多少％？
A. 30
B. 40
C. 50
D. 60

(A) 40. 穀類裝載船之甲板線，該線上緣位於乾舷甲板上緣向外延伸與船殼板外面相交之點，其長、寬各為多少公厘？
A. 長300公厘寬25公厘
B. 長280公厘寬25公厘
C. 長260公厘寬18公厘
D. 長240公厘寬18公厘