108年第四次交通部航海人員測驗【601】二等船副【000016】貨物作業概要

(A) 1. 貨物體積英文專有名詞Cargo Capacity，其中文意義為何？
A. 貨艙容積
B. 客艙容積
C. 散裝容積
D. 包裝容積

(B) 2. 脫臭劑以硝石灰粉0.5 (lbs)加清水多少(g)所成的溶液效果良好?
A. 1.5
B. 2.5
C. 3.5
D. 4.5

(A) 3. 自貨艙一舷之肋骨外緣量至另一舷肋骨外緣；自艙底板上甲板頂端至甲板樑之上緣之空間容積稱為什麼？
A. 散裝容積
B. 穀物容積
C. 包裝容積
D. 液體容積

(B) 4. 甲板木材貨物用以繫固的繫縛索（Lashing）在承受其破斷強度80％應力時，延展的長度不可超過多少？
A. 4%
B. 5%
C. 6%
D. 8%

(C) 5. 某木材船船寬25公尺，若航行時橫搖週期為35秒，問定傾高度（GM）大約為多少？
A. 0.17公尺
B. 0.29公尺
C. 0.32公尺
D. 0.36公尺

(C) 6. 下列何者不是固體散貨船運輸過程中的危險性?
A. 因化學反應而引起火災、中毒等事故
B. 穩性減小或喪失
C. 俯仰差變大
D. 船舶結構損壞

(A) 7. 穀物裝載準備，為證明船舶安全穩度基準，已平艙滿載艙間應如何處理？
A. 垂向重心下移影響計入1.06倍橫向傾側力矩
B. 穀物橫移之假定傾側力矩值計算
C. 穀物垂向移動所生空隙不列入考慮
D. 貨物重心以貨物實質貨據面積中心計算

(B) 8. 繫栓桿（Lashing Rods）是指圖示上那一個屬具？



A. ④
B. ③
C. ②
D. ①

(A) 9. 貨物固定時為了固縛索之長短的調整，一般均在中間裝上下列哪一項之裝置？
A. Peck and Hale
B. 短環鎖
C. 鋼索
D. 鍊條

(A) 10. 某輪某航次裝一批瓷器，下列敘述何者不正確？
A. 裝於任一貨艙的二層艙艙口外緣的四周
B. 裝於大艙底艙上層
C. 裝於艏艉艙底艙上層
D. 裝於任一貨艙的二層艙艙口位上層

(B) 11. 某散裝船艏吃水8.6公尺，船中吃水為9.4公尺，艉吃水9.8公尺，請問船舶處於何種狀態為何？
A. 中拱狀態
B. 中垂狀態
C. 平正狀態
D. 超載狀態

(B) 12. 請問圖示內Bay Plan左上方邊框內之貨艙內貨櫃Row為多少？

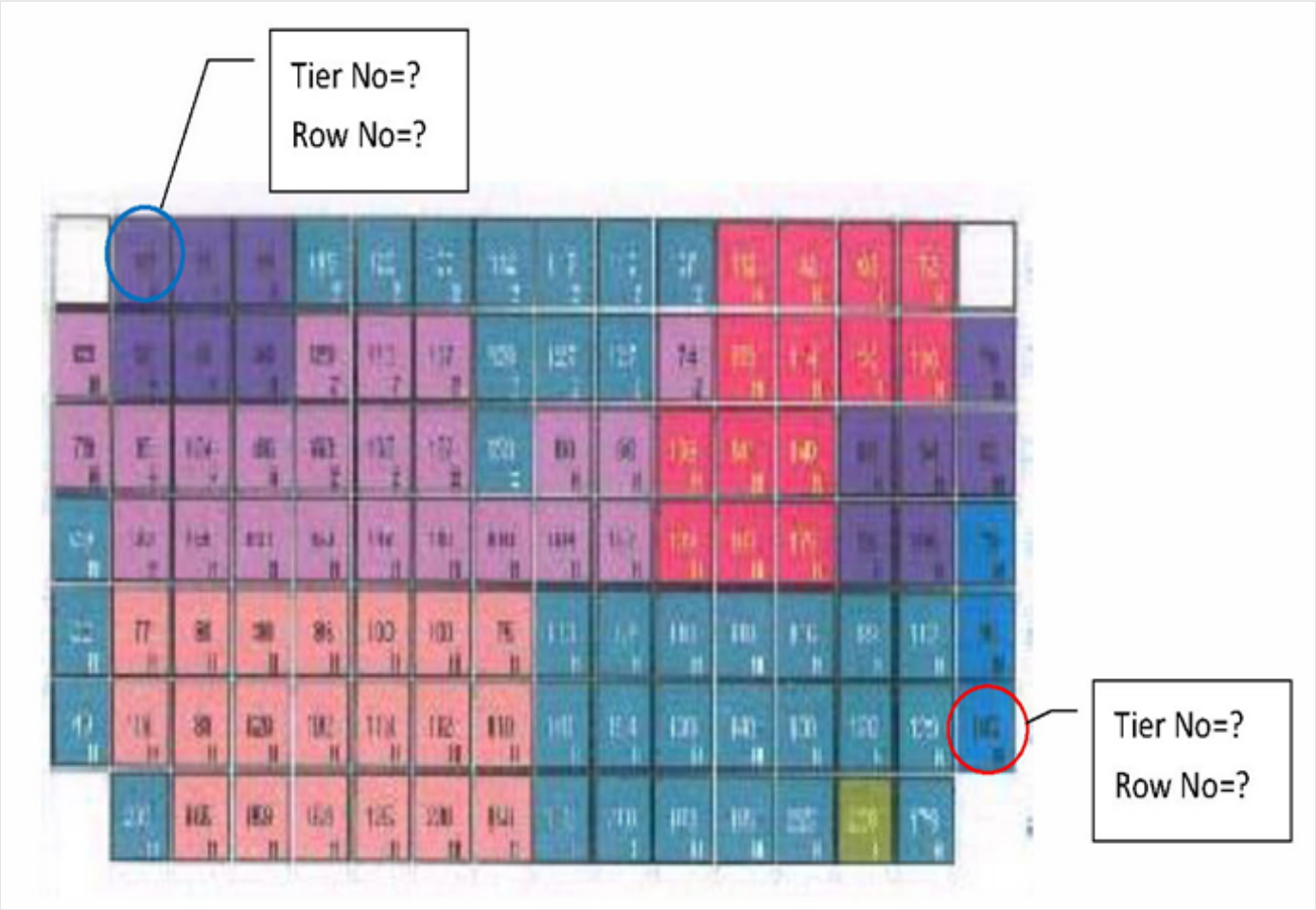

A. 13
B. 14
C. 15
D. 16

(B) 13. 艙蓋開啟時，分別向左右或前後滑動並平置於甲板上方，稱之何？

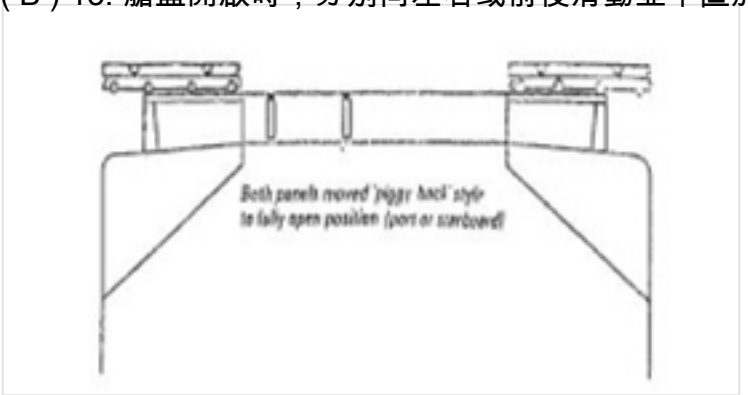

A. Roll stowing type hatch cover 捲簾式艙蓋
B. Roll type hatch cover 滑動式艙蓋
C. Sliding,Nesting type hatch cover 滑收式艙蓋
D. Rolling and Tipping type hatch cover 翻立式艙蓋

(B) 14. 下列何者屬於吸濕性質之貨物?
A. 罐頭
B. 椰乾
C. 玻璃
D. 儀器

(A) 15. 國際海運危險品準則之「危險貨物一覽表」第10欄位係標示“IBC Instructions”，若某危險貨物之該欄位僅標示"IBC"，之後未接數字，試問係指下列何義？
A. 表示該貨物不允許以中型散裝容器運送
B. 表示該貨物若以中型散裝容器運送時無任何限制
C. 表示該貨物不允許以大型散裝容器運送
D. 表示該貨物若以大型散裝容器運送時無任何限制

(A) 16. 國際海運危險品準則之「危險貨物一覽表」第15欄位係標示「船舶載運危險貨物緊急措施指南」，若某危險貨物之該欄位標示"F-A S-A"，試問"F-A"代表何義？
A. 一般火災事故緊急措施
B. 易燃氣體火災事故緊急措施
C. 毒性物質洩漏事故緊急措施
D. 有機過氧化物洩漏事故緊急措施

(B) 17. 在一般裝貨情況下，船舶具有恢復平正狀態之能力而不易傾覆，此稱為列何種平衡？
A. 隨意平衡
B. 穩定平衡
C. 不穩定平衡
D. 不知之平衡

(C) 18. 當船舶以橫軸為基準縱向俯仰時，非永遠保持平正狀態，經常會有俯仰差，若是艏艉吃水一樣時，稱為下列何者？
A. 俯仰差艏重
B. 俯仰差艉重
C. 俯仰差均衡
D. 俯仰差失調

(A) 19. 墊在桶裝貨物（如酒桶）之底下，以防止木桶移動或滾動的木材墊材稱為什麼？
A. 楔子（Quoin）
B. 長材（ Long wood）
C. 短材（Cord wood， piece wood）
D. 板材（Plank）

(B) 20. 雜貨船的二層艙裝載袋裝米時，應先在艙底鋪設二層木板，問此兩層木板的鋪設方向為何？
A. 上縱向下橫向直角鋪設
B. 上橫向下縱向直角鋪設
C. 只用橫向鋪設
D. 只用縱向鋪設

(C) 21. 船中間部位變形時，上層甲板承受拉力、下層甲板承受壓力時，代表船體當時處於何種狀態？
A. Sagging，中文是指中垂
B. Sagging，中文是指中拱
C. Hogging，中文是指中拱
D. Hogging，中文是中垂

(C) 22. 穀物散裝貨輪的貨艙要求，下列何者錯誤？
A. 貨艙要求乾淨，沒有前載穀物貨物遺棄殘留
B. 貨艙不容有蟲害，必要時先行燻艙
C. 貨艙殘餘蟲屍骸並非活體尚可接受
D. 一般穀物的裝載要求貨艙乾燥無臭味

(B) 23. 大型油輪裝卸貨油時，為便於緊急情況船舶拖帶使用，在船艏、艉外舷須準備安全鋼索，鋼索一端垂於外舷水面之上，該鋼索直徑應不得少於？
A. 28mm
B. 38mm
C. 48mm
D. 58mm

(B) 24. 船長24M以下之船舶，艙蓋(Hatch Cover)最低設計負載量，第一種位置(Position 1)船首起1/4長度處除外，其他第一種位置(Position 1)艙蓋被設計負載量至少為何？
A. $1.2t/m^2$
B. $2.0t/m^2$
C. $3.2t/m^2$
D. $4.0t/m^2$

(B) 25. 冬天時，船在日本裝罐頭航向泰國時，容易發生何種現象？
A. 船體出汗
B. 貨物出汗
C. 由艙外導入空氣露點較低
D. 貨物的溫度較高

(A) 26. 下列哪一個不是IMSBC Code 附錄二中對於TML測試的方式？
A. 箱罐測試（Can Test ）
B. 流盤試驗（Flow table test）
C. 壓入試驗（Penetration test）
D. 普氏/法氏試驗（Proctor/Fagerberg test）

(B) 27. 下列何者並非為依製造材料分類之貨櫃？
A. 鋁質貨櫃
B. 散裝貨櫃
C. 鋼質貨櫃
D. 強力塑膠面合板貨櫃

(A) 28. 下列何種貨物運送溫度為-12℃~-7℃間?
A. 凍結貨物
B. 冷溫貨物
C. 涼溫貨物
D. 常溫貨物

(D) 29. 依據國際海運危險品準則的規範，第一類危險貨物的積載位置遠離「駕駛台」之水平距離至少應有幾公尺？
A. 5公尺
B. 6公尺
C. 7公尺
D. 8公尺

(D) 30. 國際海運危險品準則之危險品隔離表中，所標示之數字"4"係指下列何義？
A. 遠離
B. 隔離
C. 以一完整艙間或貨艙隔離
D. 以介於其間的一完整艙間或貨艙做縱向隔離

(A) 31. 依據國際海運危險品準則之規範，危險貨物包裝件之間的隔離若應採取「遠離」方式，其間水平隔離距離(以垂直投影求得)應至少達幾公尺？
A. 3公尺
B. 4公尺
C. 5公尺
D. 6公尺

(D) 32. 「危險貨物事故醫療急救指南」是針對國際海運危險品準則中的物質、材料和物品及下列何者中之具有化學危險性的物質，對船上人員因為化學品造成的中毒，提供初步的診斷和治療建議？
A. 固體散裝貨物安全作業準則
B. 載運散裝危險品船舶構造與設備國際章程
C. 載運散裝液化氣體船舶構造與設備章程
D. 國際海運固體散裝貨物準則

(A) 33. 棉花可與下列何種貨物同時合裝於一貨艙？
A. 玻璃
B. 餅渣
C. 亞麻子
D. 大麻子

(B) 34. 專用英文名詞 Freight List，其意義為何？
A. 理貨單
B. 運費單
C. 小提單
D. 艙口單

(A) 35. 油輪之貨艙經Gas free後，若欲使用電焊或其他引起火花之工作，油氣含量應達到多少%以下？
A. 0.05
B. 1
C. 3
D. 5

(A) 36. 重大件繫固索，當多個繫固屬具串接使用時，則最大繫固負荷MSL應取其中何值最正確？
A. 最小值
B. 最大值
C. 平均值
D. 臨界值

(B) 37. 下列何項屬於「危險貨品」分類中之第二類危險品？
A. 油漆
B. 裝有瓦斯之打火機
C. 汽油
D. 樟腦油

(A) 38. 現代之木材船其艙口之總長度為下列何者之25%~50%左右？
A. 船舶之垂間長度
B. 船舶之全長
C. 船舶之寬度
D. 船體之深度

(B) 39. 下列何者為利用自然風力進行通風，將上風舷的通風筒朝向下風，而將下風舷的通風筒轉

向上風？
A. 消極性自然通風
B. 積極性自然通風
C. 機械通風
D. 乾燥通風

(D) 40. 一般而言，貨櫃船在旺季滿載配艙時，船方就甲板上所應加裝高層櫃數，應注意事項很多，下列敘述中，何者不正確？
A. 應以不影響船舶航行時駕駛台所需之安全視野為原則
B. 應以租約內已明定層數為原則
C. 應慮及其櫃頂與卸貨港吊車車架間之間距不得少於該吊車之最小運作距離
D. 受到法規規定之3層限制