109年第二次航海人員測驗【301】一等船副【000004】貨物作業

(C) 1. 下列何者稱為船舶裝貨後，船公司與託運人間之運送契約？
A. 裝貨單
B. 收貨單
C. 提單
D. 艙單

(B) 2. IMDG Code中所提及之"D.G.L."係指下列何者？
A. 危險貨物艙單
B. 危險貨物一覽表
C. 危險貨物積載圖
D. 危險貨物證明文件

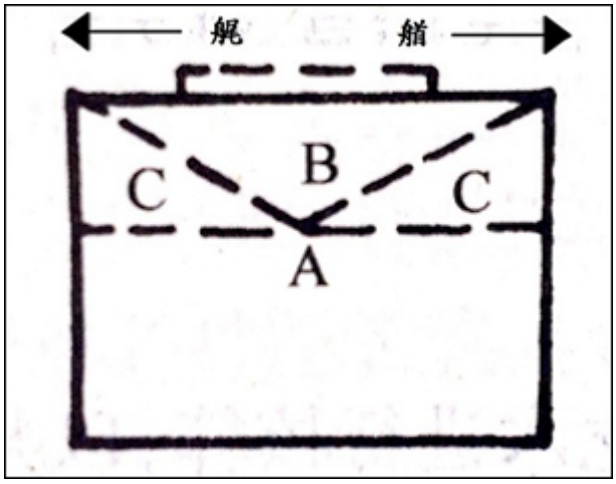

(C) 3. 圖中的雜貨配載圖，圖中C貨物裝在何處？
A. 底艙上層的左舷
B. 底艙上層的右舷
C. 底艙上層的兩舷
D. 底艙上層的下半部

(D) 4. 下列何者不是貨艙裝貨需使用墊材之目的？
A. 使貨物汗濕或液體貨物洩漏時所流出的水順利排出
B. 使貨物和艙壁間有空隙，便於通風
C. 固定貨物，防止移動
D. 防止偷竊

(A) 5. 墊在桶裝貨物（如酒桶）之底下，以防止木桶移動或滾動的木材墊材稱為什麼？
A. 楔子（Quoin）或枕木（Bed）
B. 長材（ Long wood）
C. 短材（Cord wood piece wood）
D. 板材（Plank）

(B) 6. 貨櫃船因全部裝、卸載貨櫃均須經艙口作垂直上下之運動，而在艙內無水平之移動（指一般吊上吊下型貨櫃船而言）。但卻因此甲板面積大為減少，而削弱了船體的何種功能?
A. 穩定度
B. 縱向強度
C. 定傾高度
D. 動穩定度

(B) 7. 船舶非永遠保持平正狀態，當艉吃水比艏吃水大時，稱為下列何者？
A. Trim by Head
B. Trim by Stern
C. Even Trim

D. Even Keel

(C) 8. 船艙內液體因自由液面效應對船舶靜穩性力臂的影響為何？
A. 靜穩性力臂變大
B. 靜穩性力臂不變
C. 靜穩性力臂變小
D. 對靜穩性力臂無影響

(C) 9. 散裝穀物船運輸，裝卸貨中計量數，如何作法？
A. 有關船舶裝卸作業計量數應依岸上執行
B. 船上應以水尺數計量做為標準
C. 岸上計量和船上水尺檢測計算誤差值列入記錄登載
D. 依艙間容積轉換積載因素計算

(D) 10. 因油艙狀況不同，惰性氣體系統操作亦有所不同，例如油氣不斷的逸出，混於艙內之惰性氣體中，此時惰性氣體系統進口關閉，油氣與惰性氣體之混合氣體經由真空壓力閥逸入空氣中，為下列何種狀況?
A. 卸載時
B. 洗艙時
C. 空載時
D. 裝油時

(A) 11. 某一試驗程序：以一容量0.5公升至1公升的圓筒形罐子盛裝半罐物質樣品，用一手拿起罐子自0.2公尺高度迅速向下撞擊一堅硬的表面，以1秒至2秒的間隔，重複此一程序25次。試問此試驗之目的為何？
A. 觀察測試樣品表面是否呈現游離水分
B. 觀察測試樣品是否具有化學危險性
C. 觀察測試樣品是否具有毒姓
D. 觀察測試樣品是否容易自燃

(D) 12. 船舶大量裝運散裝礦砂，應遵守下列何項現行章程？
A. BC Code
B. IBC Code
C. IGC Code
D. IMSBC Code

(D) 13. 船舶大量裝運散裝穀類貨物，應遵守下列何項現行章程？
A. International Bulk Cargoes Code
B. Code of Safe Practice for Solid Bulk Cargoes
C. International Maritime Solid Bulk Cargoes Code
D. International Code for the Safe Carriage of Grain in Bulk

(D) 14. 重量單位中，1長噸應為幾磅？
A. 2000
B. 2200
C. 2204
D. 2240

(B) 15. 下列何者對船上而言是公司通知船上裝載某項貨物之憑證？
A. 收貨單
B. 裝貨單
C. 艙單
D. 提單

(C) 16. 船舶裝載煤炭時，宜採用下列何種通風換氣法？
A. 循環通風法
B. 密閉通風法
C. 表面通風法
D. 機械通風法

(A) 17. 下列那一種貨櫃是以形狀及構造分類之貨櫃？
A. 液槽貨櫃
B. 汽車貨櫃
C. 乾貨櫃
D. 散裝貨櫃

(B) 18. 地帶及季節性區域圖(Zones and Seasonal Areas)，將全球之水域分成哪些區域?
A. 夏季、熱帶、春季以及北大西洋冬季
B. 夏季、熱帶、冬季以及北大西洋冬季
C. 夏季、熱帶、春季以及北太平洋冬季
D. 夏季、熱帶、冬季以及北太平洋冬季

(B) 19. IMSBC Code的貨物分類中，C類貨物是指下列何者？
A. A類及B類貨物
B. A類及B類以外的貨物
C. 包含A類但不包含B類之貨物
D. 包含B類但不包含A類之貨物

(C) 20. 船舶貨艙之包裝容積，其計算自貨艙兩舷側之墊材量至另一側墊材，自艙底板至何處之空間?
A. 上甲板橫樑上緣
B. 二甲板橫樑上緣
C. 上甲板橫樑下緣
D. 二甲板橫樑下緣

(B) 21. 排水量噸數計算公式中，最高載重線吃水是以下列何者為代表？
A. BMLD
B. DMLD
C. LDWL
D. DDWL

(A) 22. 在惡劣天候狀況時，所造成何種現象會引起船舶的應力加大？
A. 過度加速度
B. 相對加速度
C. 等加速度
D. 平均加速度

(A) 23. 下列圖示靜水性能曲線圖，用排水量37500噸，求取船舶各項靜水性能數值，如MTC=?

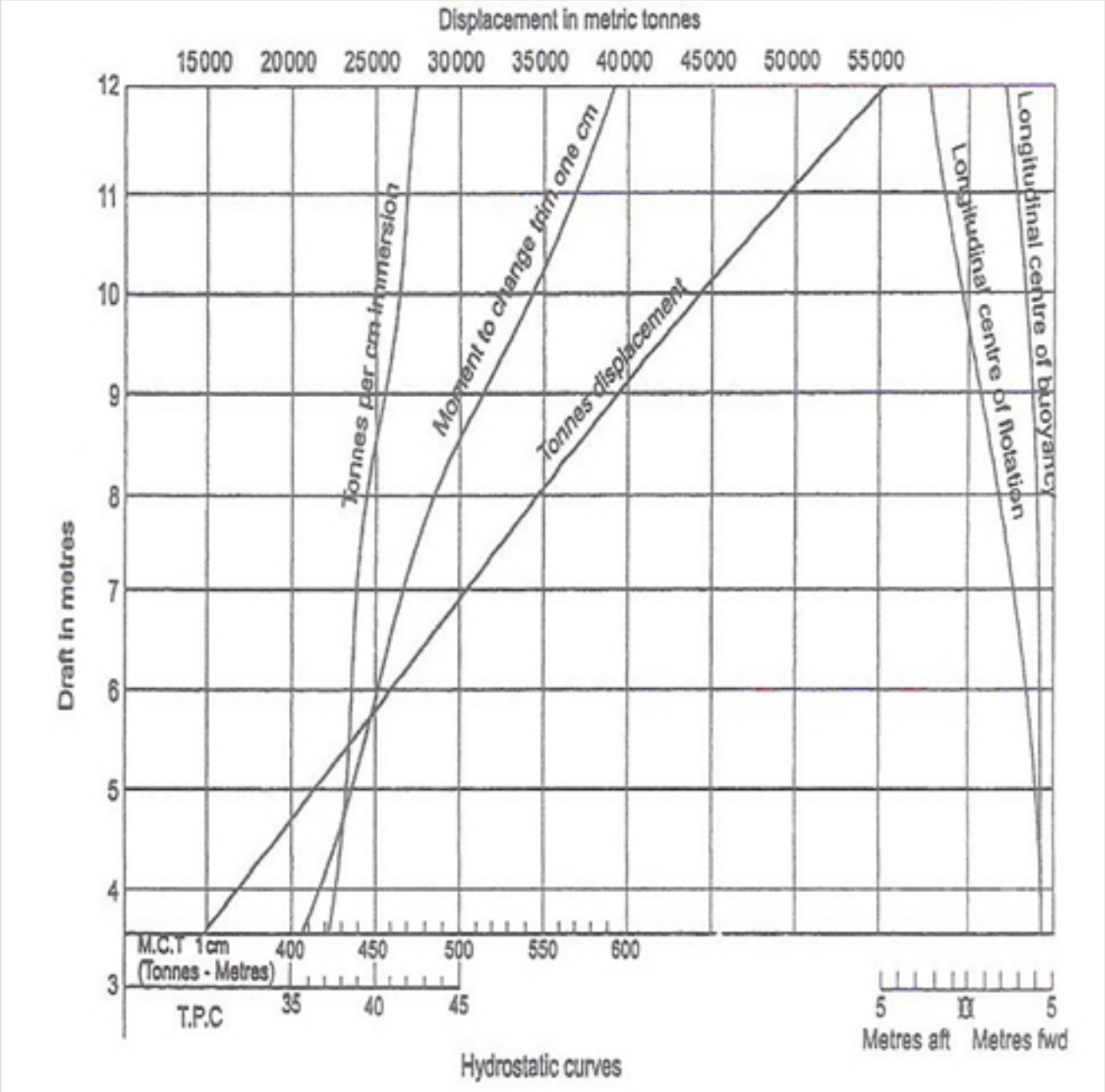

A. 500 噸-公尺
B. 475噸-公尺
C. 525 噸-公尺
D. 535噸-公尺

(D) 24. 下列圖示載重標尺圖，當船舶在夏季載重線(S)標誌時，船舶海水排水量為多少?

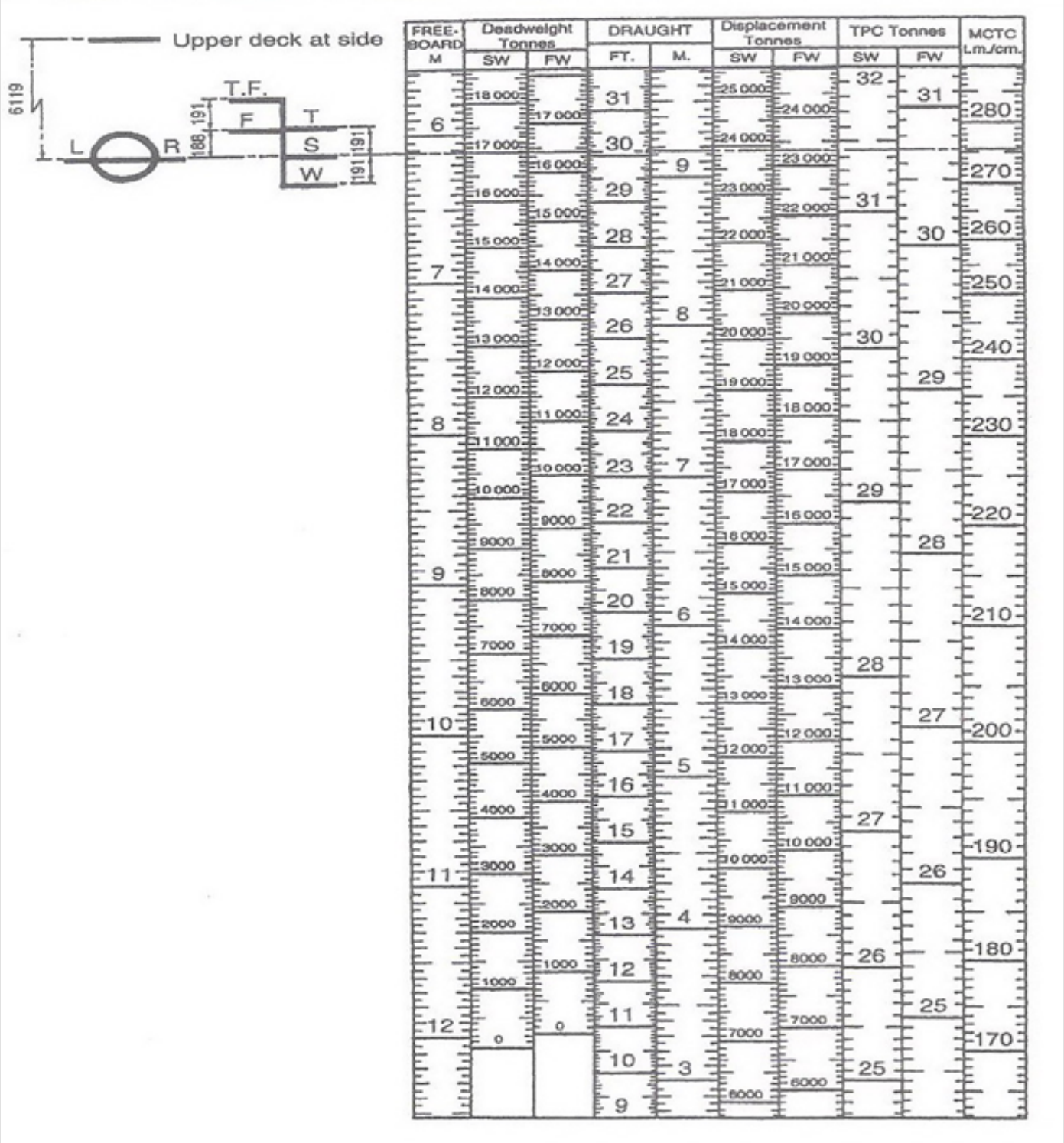

A. 24500噸
B. 23300噸
C. 23000噸
D. 23900噸

(D) 25. 以下何種繫固工具(Lashing gear)為汽車裝載使用？
A. 伸縮螺絲扣（Turnbuckle）
B. 繫栓鋼纜（Lashing wire）
C. 短環鎖(Short link chain)
D. 可調整鋼纜脫結器(Peck and hale)

(D) 26. 依據IMDG Code的規範，在貨物運輸單元標示標牌和標記的方法，必須使貨物運輸單元在海水中浸泡多久後，仍能辨識其上的標牌和標記？

A. 15天
B. 1個月
C. 2個月
D. 3個月

(A) 27. 依據IMDG Code的規範，以鬆散包裝容器(Loose Packagings)裝置魚粉(Fishmeal)時，在航程中每天必須量測幾次溫度讀數並予以記錄？
A. 三
B. 四
C. 五
D. 六

(B) 28. 某船舶總載重量8000噸，該船各艙容積為545000立方呎，下大艙容積345000立方呎，二層艙容積為200000立方呎。今欲裝載鋁塊（S.F.40立方呎/噸）及外銷成衣（S.F.100立方呎/噸），求在經濟原則下，各應裝多少噸？
A. 鋁塊3750；外銷成衣4250
B. 鋁塊4250；外銷成衣3750
C. 鋁塊3250；外銷成衣4750
D. 鋁塊4750；外銷成衣3250

(B) 29. 性質互相衝突的貨物需隔離裝貨，下列隔離等級何者最高？
A. 混裝
B. 不同艙
C. 不同室
D. 不相鄰

(D) 30. 下列何種貨物不可和棉花裝在同一室？
A. 玻璃
B. 罐頭
C. 工藝品
D. 水果

(C) 31. 某船之艏吃水12m，艉吃水14m，已知該船之TPC為20，MTC為500，今在距俯仰中心60m之艏尖艙打入海水80Tons，求新艏吃水？
A. 11m 13.6cm
B. 11m 91.2cm
C. 12m 08.8cm
D. 12m 13.6cm

(A) 32. F.I.O.是指貨物裝卸費用均由下列何者負擔？
A. 貨主
B. 船東
C. 航港局
D. 車主

(B) 33. 某穀類裝載船之橫搖週期為16秒，不幸撞及水下礁石後第一艙浸水，此時測量搖擺週期為20秒，碰撞後之穩心高度為碰撞前之百分之幾？
A. 54
B. 64
C. 68
D. 71

(C) 34. 貨櫃船運輸中，大件貨超高櫃（High cube）應配置在下列那一層，最不影響裝載量？

A. 艙內最下層
B. 艙內最上層
C. 上甲板最上層
D. 上甲板最下層

(A) 35. 若危險貨物是第2.3類有毒氣體，則其氣體的LC50值應小於多少ppm？
A. 5000
B. 6000
C. 7000
D. 7500

(A) 36. 船舶拍擊應力（Panting stress）所產生的原因為何？
A. 橫搖時艏艉所承受波浪拍打所產生的應力
B. 橫搖時兩船舷吃水不同，所產生的應力
C. 天氣惡劣時，海浪對甲板衝擊所產生的應力
D. 波浪打擊船底時所產生的應力

(D) 37. 箱形艙口蓋製造通常使用下列何種材料？
A. 木質材料
B. 銅質材料
C. 鋁質材料
D. 金屬或鋼質

(A) 38. 在全貨櫃船的積載圖中編號為180504代表該貨櫃在船上何位置？
A. Bay18 Row05 Tier04
B. Bay18 Tier05 Row04
C. Row18 Tier05 Bay04
D. Tier18 Row05 Bay04

(A) 39. 某船船寬25公尺，穩定中心高度GM為4.00公尺，則該船之橫搖周期約為多少秒？
A. 10
B. 15
C. 18
D. 20

(A) 40. 依船舶危險品裝載規則規定，將棉花裝載於與機艙鄰接之船艙或艙區內時，其與機艙之艙壁至少應保持多少公釐以上之距離？
A. 50
B. 100
C. 150
D. 200