110年第一次航海人員測驗【601】二等船副【000016】貨物作業概要

(D) 1. 依據國際海運散裝固體貨物章程，B類散裝固體貨物和包裝形式危險貨物的隔離表中，隔離術語"4"係表示下列何者？
A. 遠離
B. 隔離
C. 以一完整的艙間或貨艙隔離
D. 以介於其間的一完整艙間或貨艙隔離做縱向隔離

(D) 2. 船舶大量裝運散裝礦砂，應遵守下列何項現行章程？
A. 固體散裝貨物安全作業準則
B. 載運散裝危險品船舶構造與設備國際章程
C. 載運散裝液化氣體船舶構造與設備章程
D. 國際海運散裝固體貨物章程(IMSBC Code)

(B) 3. 貨物之包裝或內容，由於其性質或價值，易於一般常見物品，需要特別儲運或監視，以免發生損壞、竊盜或危險，該貨物稱為下列何者？
A. Homogeneous Cargo
B. Special Cargo
C. General Cargo
D. Package Cargo

(D) 4. 易流態化貨物是指有何種特性的固體散貨？
A. 積載因素較小
B. 含水量較小
C. 裝載船上容易爆炸
D. 裝載於船上因船舶橫搖、震動而容易流動之貨物

(B) 5. 下列何者為“柔性船”之特性？
A. 船舶航行時前後搖擺慢
B. 船舶航行時左右搖擺慢
C. 船舶航行時上下跳動慢
D. 船舶航行時上下跳動快

(B) 6. 下列那一圖示為橫移(Sway)？

A

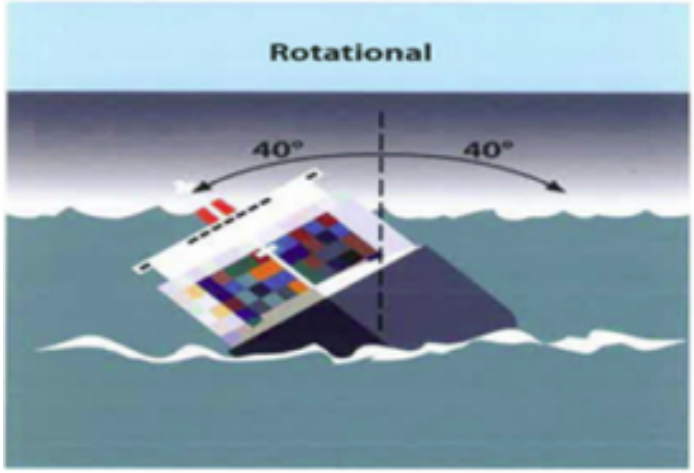

B

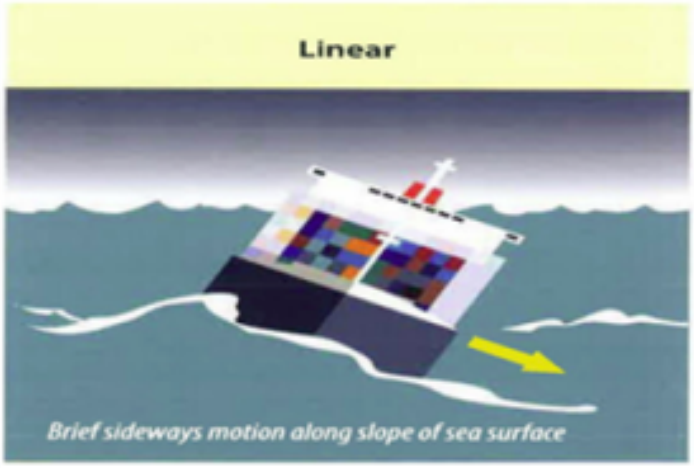

C



D

A. 圖A
B. 圖B
C. 圖C
D. 圖D

(A) 7. 文具和紙張裝載時最少的隔離條件為何？
A. 可混裝
B. 不相鄰
C. 不同室
D. 不同艙

(B) 8. 依哪個公約之規定，散裝貨船之艙蓋在任何海況與氣候之下，艙蓋都應保持完全水密並防止海水滲入艙間？
A. STCW公約
B. SOLAS公約
C. MARPOL公約
D. MLC公約

(B) 9. 對於靜止角小於或等於多少的非黏性固體散貨，應按散裝穀物平艙要求？
A. 25度
B. 30度

C. 37度
D. 45度

(A) 10. 下列何者不是散裝煤炭的特性？
A. 呼吸性
B. 易自熱自燃
C. 產生易燃易爆氣體
D. 易流態化

(C) 11. 裝載穀類船舶，航行中，由於貨重分配不均或波浪之影響使船舶產生拱曲或舯垂之縱向應力稱之為何？
A. 復原力矩
B. 扭曲力矩
C. 彎曲力矩
D. 剪力力矩

(A) 12. 貨櫃碼頭搬運作業方式，具有不需要廣大的貨櫃場及配備操作運轉呆笨的跨載機之優點，其屬於下列哪一項？
A. 貨櫃海運公司法
B. 格雷斯輸船公司法
C. 海陸法
D. 美新法

(B) 13. 燃燒所需油氣之最低含量稱為？
A. 燃燒上限
B. 燃燒下限
C. 爆炸上限
D. 爆炸下限

(C) 14. 液化瓦斯船貨艙檢查之準備工作，貨艙必須經過下列正確程序以確保安全？
A. 惰化、暖艙、通風
B. 通風、暖艙、惰化
C. 暖艙、惰化、通風
D. 惰化、通風、暖艙

(B) 15. 積載因素是指一噸貨物裝載貨艙中，所佔立方體積之平均數，積載因素越小則貨物比重為何？
A. 越小
B. 越大
C. 不變
D. 無關

(A) 16. 依據國際海運危險品準則的定義，第1類爆炸物依其危險性，又可分為6個危險性分類，即第1.1分類至第1.6分類，試問下列何者之危險性最大？
A. 第1.1分類
B. 第1.2分類
C. 第1.4分類
D. 第1.6分類

(A) 17. 船舶航行在冬季季節地帶及季節性區域圖時，其最大吃水為何？
A. W標誌水線上緣
B. W標誌水線下緣
C. F標誌水線上緣

D. F標誌水線下緣

(B) 18. 依據國際海運危險品準則的規範，圖示標籤係標示下列何項危險貨物？
A. 可分裂物質
B. 高溫物質
C. 傳染性物質
D. 放射性物質

(A) 19. 下列何種金屬盤捲貨物不能做為打底貨？
A. 電纜
B. 冷延鋼板盤捲
C. 熱延鋼板盤捲
D. 洋鐵板盤捲

(C) 20. 當貨艙裝有貨物，一般燻艙的時間是多少小時？
A. 2
B. 3
C. 4
D. 5

(A) 21. 穀類貨物卸貨，當卸貨發現濕損時，應如何處理？
A. 可以請求公證限定範圍及責任
B. 貨物攪動減少損失範圍
C. 貨物結塊若係淡水導致不損貨質
D. 貨物可以翻動變動後直接卸貨

(D) 22. 1966年國際載重線公約將船舶分為甲型船 (Type A Ship)及乙型船(Type B Ship)，下列敘述何者錯誤？
A. 乙型船為供載運散裝液體貨物 (Liquid Cargo in Bulk)以外的船
B. 滿載時乙型船乾舷比甲型船大
C. 甲型船液體貨艙上僅設置較小的開口
D. 乙型船需全面配置水密(Watertight) 艙口蓋

(D) 23. 吊桿索具圖中標示⑦所指的名稱為何？

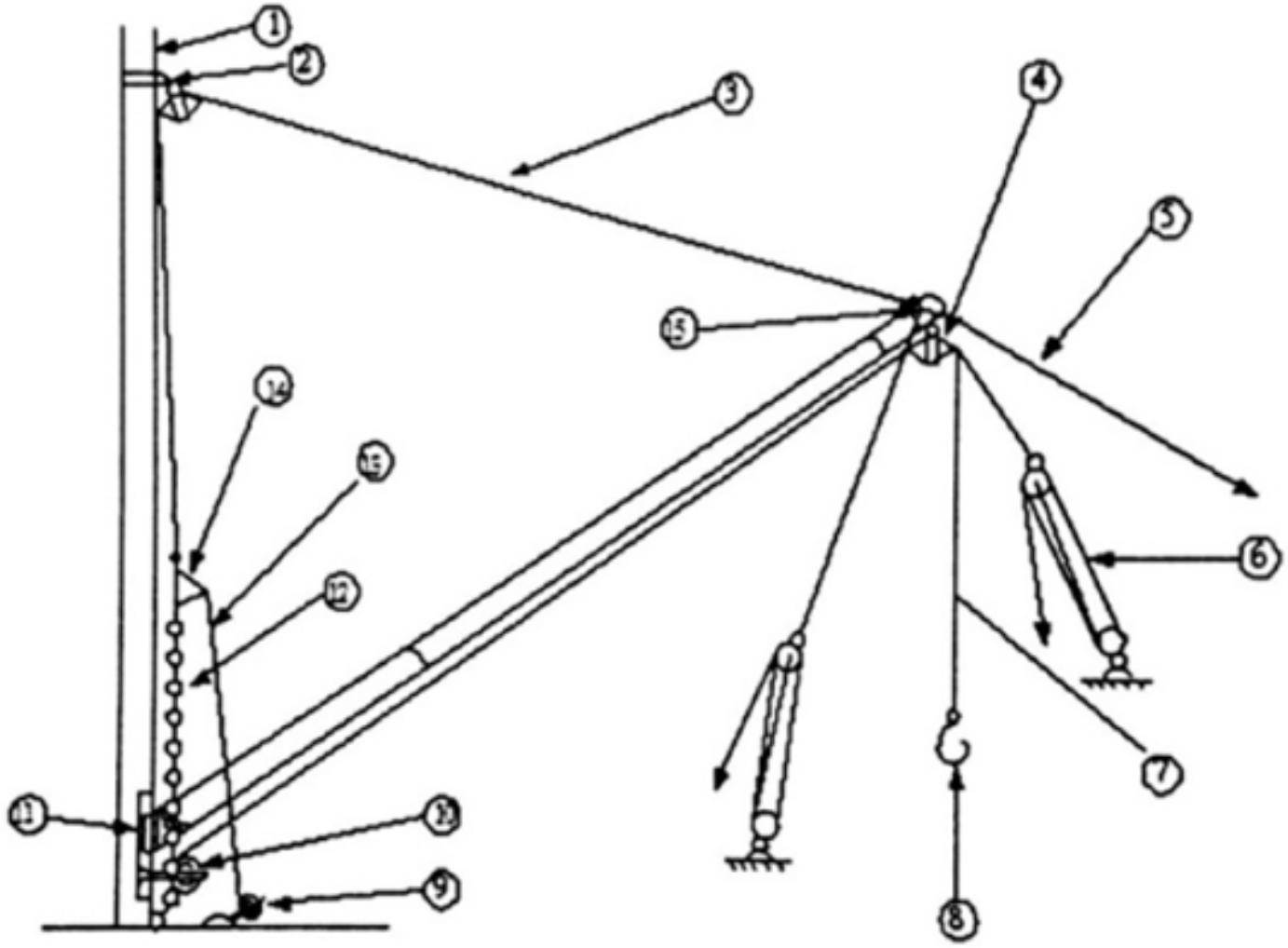

A. Preventer guy
B. Guy
C. Topping lift span
D. Runner

(D) 24. 穀物散裝之運輸特性，下列何者錯誤？
A. 穀物船艙要求銹斑應予以清除
B. 穀物要求保持乾燥，各個開口通氣管理應予以注意
C. 穀物船艙間防止水損，污水槽管路不可以倒流
D. 穀物船艙間防水損，污水槽蓋不可有滲水功能

(C) 25. 穀物裝載前準備，考慮最大運載能力，下列何者錯誤？
A. 考慮起始港、目的港途經水路之載重限制
B. 足夠船舶補給、燃油及用水
C. 船舶須保持適量壓艙水
D. 船舶艙間容許的攜帶貨量

(C) 26. 載重線海區圖英文名詞Zones and Seasonal Areas，其意為何？
A. 時間及季節性區域圖
B. 時間及海洋性區域圖
C. 地帶及季節性區域圖
D. 地帶及海洋性區域圖

(B) 27. 下列哪一載重線是依夏季裝載線為準，而依夏季水尺每公尺減少吃水1/48公尺計得之？
A. 夏季

B. 冬季
C. 熱帶
D. 冬季北大西洋

(B) 28. 某船浮於比重1.025之海水中，其滿載排水體積為280000立方呎，其排水量約為多少？
A. 7000噸
B. 8000噸
C. 9000噸
D. 10000噸

(A) 29. 英文專有名詞Package Cargo，其中文意義為何？
A. 包裝貨
B. 散裝貨
C. 木材類
D. 油貨類

(B) 30. 運送廢棄物須遵守相關國際公約和建議案，但若以散裝海運方式，則應遵守下列何者之規範？
A. 貨物積載及繫固安全實務章程
B. 國際海運散裝固體貨物章程
C. 廢棄物處理國際公約
D. 國際海運危險品準則

(A) 31. 國際海運危險品準則之「危險貨物一覽表」第16欄位係標示「積載及隔離」，試問下列何項係針對第2類至第9類危險貨物的正確標示？
A. Category A
B. IBC02
C. BK2
D. TP33

(C) 32. 國際海運危險品準則之「危險貨物一覽表」某一欄位標示著"II"(羅馬數字2)，試問該欄位可能為下列何者？
A. 第1欄位
B. 第3欄位
C. 第5欄位
D. 第15欄位

(C) 33. 下列有關容積的敘述，何者為正確？
A. 包裝容積（Bale capacity）等於散裝容積（Grain capacity）
B. 包裝容積大於散裝容積
C. 包裝容積小於散裝容積
D. 包裝容積其計算自一舷肋骨之外緣至他舷肋骨之外緣，自艙底板頂端至甲板樑之上緣

(C) 34. 散裝貨物裝船，於船艙中實施平艙（Trimming）作業，最主要之目的為何？
A. 增加積載量
B. 易於艙蓋之吊放
C. 航行中減少貨物之移動
D. 便利於計算貨量

(B) 35. 冷藏貨物在裝艙前，船方應作好之準備工作，以下何者錯誤？
A. 貨艙檢驗通過
B. 變更貨艙結構
C. 貨艙預冷及貨艙除臭

D. 貨艙清潔及貨艙檢查

(C) 36. 積載因素與貨物比重間的關係，下列敘述何者正確？
A. 凡貨物比重大者，積載因素也大
B. 凡貨物比重小者，積載因素也小
C. 凡貨物比重小者，積載因素則大
D. 貨物比重與積載因素無關

(D) 37. 依據海上人命安全國際公約（SOLAS）第VII章危險品之載運中將危險貨物分為九大類，請問禁水性物質歸屬為第幾類？
A. 第一類
B. 第二類
C. 第三類
D. 第四類

(C) 38. 依據「國際海運危險品章程；IMDG Code」之規定，危險貨品運輸文件中，應提示危險品特別表格或載貨單中之「主要標示」項目應為下列何者？
A. 船舶所有人及船長姓名
B. 卸貨港名
C. 危險貨品及積載位置
D. 危險品製造廠商

(B) 39. 已知某船之TPC = 16公噸，MTC = 200公尺-公噸，艏吃水4.0公尺，艉吃水4.6公尺。今於距俯仰中心之後60公尺之艉尖艙（After peak tank）裝入40公噸之水，求該船之新艉吃水為多少公尺？（假設俯仰中心位於船中心處）
A. 4.5
B. 4.685
C. 4.75
D. 4.865

(B) 40. 由貨主或收貨人聘請，檢查裝艙是否合格的鑑定人士稱為下列何者？
A. Cargo surveyor
B. Stowage surveyor
C. Draft surveyor
D. Stevedore