112年第二次航海人員測驗【301】一等船副【000002】航行安全與氣象

(C) 1. 三胞環流模型中，屬於熱力間接環流胞的是？
A. 哈得雷環流胞
B. 信風環流胞
C. 佛雷爾環流胞
D. 極地環流胞

(B) 2. 有關航行電傳（NAVTEX）氣象資訊廣播的具體國際協調安排，規定在「海洋氣象服務手冊」第幾卷的有關章節中？
A. 第一卷
B. 第二卷
C. 第三卷
D. 第四卷

(D) 3. 飛機在空投繫上黑色之彩色帶，表示飛機空投何種物品或設備？
A. 食物及飲水
B. 毛毯及保護衣物
C. 醫療用品及急救設備
D. 火爐、手斧、指南針、炊具等其他設備

(D) 4. 在進行搜救計畫作業，在適當時可自其他救助協調中心或救助分中心獲得可能需要協助之方法，但不包括下列何者？
A. 船舶
B. 飛機
C. 人員及裝備
D. 相關費用

(D) 5. 下列那一項不是救助落水人員的救助艇（Rescue boat）上的必要基本設備？
A. 無線電通訊器材
B. 救援網（recovery net）
C. 救援梯（recovery ladder）
D. 航向航速紀錄器

(A) 6. 下列哪一項不是淺水效應所產生的效應？
A. 船速增加
B. 船速減低
C. 俥舵效能變差
D. 船尾下沉

(D) 7. 從事疏浚或水下作業的船舶，致運轉能力受到限制時，於夜間依規定用以指示阻礙一邊之號燈，其水平距離，應盡量遠離裝置之運轉能力受到限制之號燈。惟其水平距離不得少於多少公尺？
A. 0.5
B. 1.0
C. 1.5
D. 2.0

(C) 8. 對於在同一搜救任務中有兩組以上之救援單位從事搜救任務時，現場應有一人協調所有任務活動，此人稱為下列何者？
A. 搜救任務協調官
B. 搜救協調官
C. 現場協調官
D. 現場指揮官

(D) 9. 航行在北太平洋的船隻，遇到颱風而無法閃避時，哪一區為較安全之區域？
A. 颱風前進方向的正前方
B. 颱風前進方向的正後方
C. 颱風前進方向的右後方
D. 颱風前進方向的左後方

(A) 10. 船舶拋錨時，錨鏈放出的長度影響錨的抓著力，當錨鏈與海底的底床成下列何種角度時，其抓著力最強？
A. 5°
B. 10°
C. 15°
D. 20°

(B) 11. 天氣圖上測站填寫資料如圖，則當時風速為何？

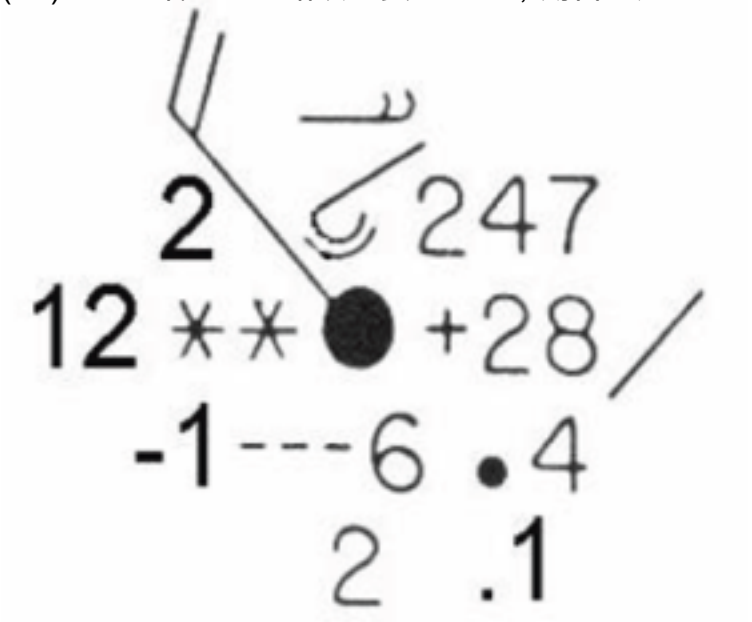

A. 10節
B. 20節
C. 40節
D. 50節

(D) 12. 對觀測雷達回跡的敘述下列何者為錯誤？
A. 岸形回跡會不同於海圖
B. 表面粗糙的冰山其回跡較強
C. 有斜面的冰山其回跡較強
D. 平滑浮冰的回跡其分布較為廣泛

(D) 13. 對流層的厚度隨緯度變化有所改變，以何處的厚度最薄？
A. 赤道
B. 南北迴歸線
C. 南北緯60°
D. 南北極

(C) 14. 若熱帶與寒帶地區之氣壓梯度相同時，則下列何者正確？
A. 熱帶地區氣壓梯度力較大，風速較小
B. 寒帶地區氣壓梯度力較大，風速較小
C. 熱帶地區氣壓梯度力較大，風速較大
D. 寒帶地區氣壓梯度力較小，風速較大

(D) 15. 依國際海上避碰規則規定，號標間之垂直距離至少應有多少公尺？
A. 0.5
B. 0.8
C. 1.2
D. 1.5

(D) 16. 依國際海上避碰規則規定顯示漁船群集捕魚時之增設信號號燈，其能見距至少多少海浬？
A. 0.3
B. 0.5
C. 0.7
D. 1

(B) 17. 當對分道通航制之調整，其延續之有效期間在幾年以上時，航政當局應考慮最後是否有必要將該設計作永久之修正？
A. 半年
B. 一年
C. 二年
D. 三年

(C) 18. 在救生部署表中，負責「鬆脫繫艇索之連接鉤板關閉定艇架之制止器及掌管前方吊索掛勾」者，係為下列何職位所負責？
A. 三副
B. 二管輪
C. 通用員
D. 大廚

(A) 19. 當船舶於航行中，受跡流及俥葉流等水流之合力作用於舵面上，因而產生舵力（rudder force），此舵力包括？
A. 轉舵力、減速力
B. 轉舵力、迴轉力
C. 減速力、舵壓力
D. 迴轉力、離心力

(B) 20. 船舶轉舵作迴轉運動時，船舶重心的橫移量稱為橫距(Transfer)。若無特別聲明，一般皆指當船首向與原來航向成幾度角時之橫距？
A. 120°
B. 90°
C. 60°
D. 30°

(D) 21. 依據「動者恆動，靜者恆靜」原理，船舶本身有持續原狀態之性質，欲使其達成新狀態，必須經歷相當之過程，此種性質稱為下列何者？
A. 延續性
B. 滑行性
C. 流體力
D. 慣性力

(A) 22. 依國際海上避碰規則規定，顯示漁船群集捕魚時之增設信號號燈，長度未滿多少公尺從事拖網作業時之船舶，不論使用海底還是遠洋拖網漁具，可視情況顯示從事圍網捕魚以外之拖網漁船信號號燈？
A. 20
B. 24
C. 30

D. 36

(C) 23. 船上消防隊之編制，一般分為四組，下列何組不在編制內？
A. 滅火組
B. 救護組兼支援組
C. 損管組
D. 救生艇組

(A) 24. 港內緊急事故所採取之行動中，當「船舶的艏部」失火時，應發出火警信號之下列敘述，何者正確？
A. 鳴汽笛或警鈴至少連續十秒鐘後，接鳴汽笛或警鈴一長一短聲
B. 鳴汽笛或警鈴至少連續十秒鐘後，接鳴汽笛或警鈴一長二短聲
C. 鳴汽笛或警鈴至少連續十秒鐘後，接鳴汽笛或警鈴一長三短聲
D. 鳴汽笛或警鈴至少連續十秒鐘後，接鳴汽笛或警鈴一長四短聲

(A) 25. 依據STCW公約第八章當值標準的規定，船舶在能見度受限制的情況下航行，下列何者是首要的工作？
A. 遵照國際海上避碰規則之規定
B. 派人就瞭望位置
C. 顯示航行燈
D. 通知船長

(C) 26. 下列何者並非空盒氣壓計觀測放置的理想場所？
A. 應裝設在具吸震的材料上
B. 航行中應放置於震動最小的地方
C. 置放於駕駛台兩舷外側高處以便直接觀測的位置
D. 儘量放置於靠近船的浮面中心處

(A) 27. 確定順流，採取港內拋錨調頭，右旋單俥船舶在空載、左正橫來風，應採取何法最佳？
A. 拋左錨、向左調頭
B. 拋右錨、向右調頭
C. 拋左錨、向右調頭
D. 拋右錨、向左調頭

(A) 28. 中國大陸出現的反氣旋會使台灣北部吹什麼風？
A. 東北風
B. 西南風
C. 西北風
D. 東南風

(D) 29. 六月份為北大西洋最多霧的一個月，此海霧的形成係因下列何種風將暖濕空氣吹越寒流海面所致？
A. 西風或西北風
B. 東風或東南風
C. 東風或南風
D. 南風或西南風

(A) 30. 一般而言，以水滴為主的暖雲其降水機制為何？
A. 重力合併過程
B. 冰晶過程
C. 乾絕熱過程
D. 濕絕熱過程

(C) 31. 間瞭望時，看到他船之號燈顯示如附圖，應為何種船舶之何種狀況？

A. 從事引水業務船舶，對水面移動
B. 從事引水業務船舶，長度20公尺，對水面移動
C. 除從事拖網捕魚外，長度未滿50公尺，其漁具超過150公尺，對水面移動
D. 除從事拖網捕魚外，長度滿50公尺，其漁具超過150公尺，不對水面移動

(D) 32. 某船上若有超過25%船員未參加前一個月該船之棄船及滅火演習，則應在何時舉行船員演習？
A. 離港前12小時內
B. 離港後12小時內
C. 離港前24小時內
D. 離港後24小時內

(D) 33. 下列有關船上滅火編制與部署之敘述，何者有誤？
A. 可採用個人（Person）或組隊（Personnel）為單位完成編制與部署
B. 以組隊（Personnel）為單位的編制與部署，必須明確規範各組隊的功能任務
C. 後勤補給小組（Back-up team）應負責對救難小組（Emergency team）供給器材或備品
D. 備便小組（Reserve team）應部署在船尾處所，負責傷患人員之急救和照護工作

(C) 34. 船舶從事疏濬或水下作業，致運轉能力受限制時，夜間顯示號燈環照綠燈二盞，表示何意義？白天號標為何？
A. 指明阻礙所在之一側；菱形號標二個於一垂直線上
B. 指明阻礙所在之一側；球形號標二個於一垂直線上
C. 指明他船可以通行之一側；菱形號標二個於一垂直線上
D. 指明他船可以通行之一側；球形號標二個於一垂直線上

(A) 35. 從事引水業務之船舶，錨泊時應顯示號標為何？
A. 一個球形
B. 二個球形
C. 二個籃形
D. 一個菱形

(C) 36. 圖中29°N，132°E這點的湧浪高度是多少？

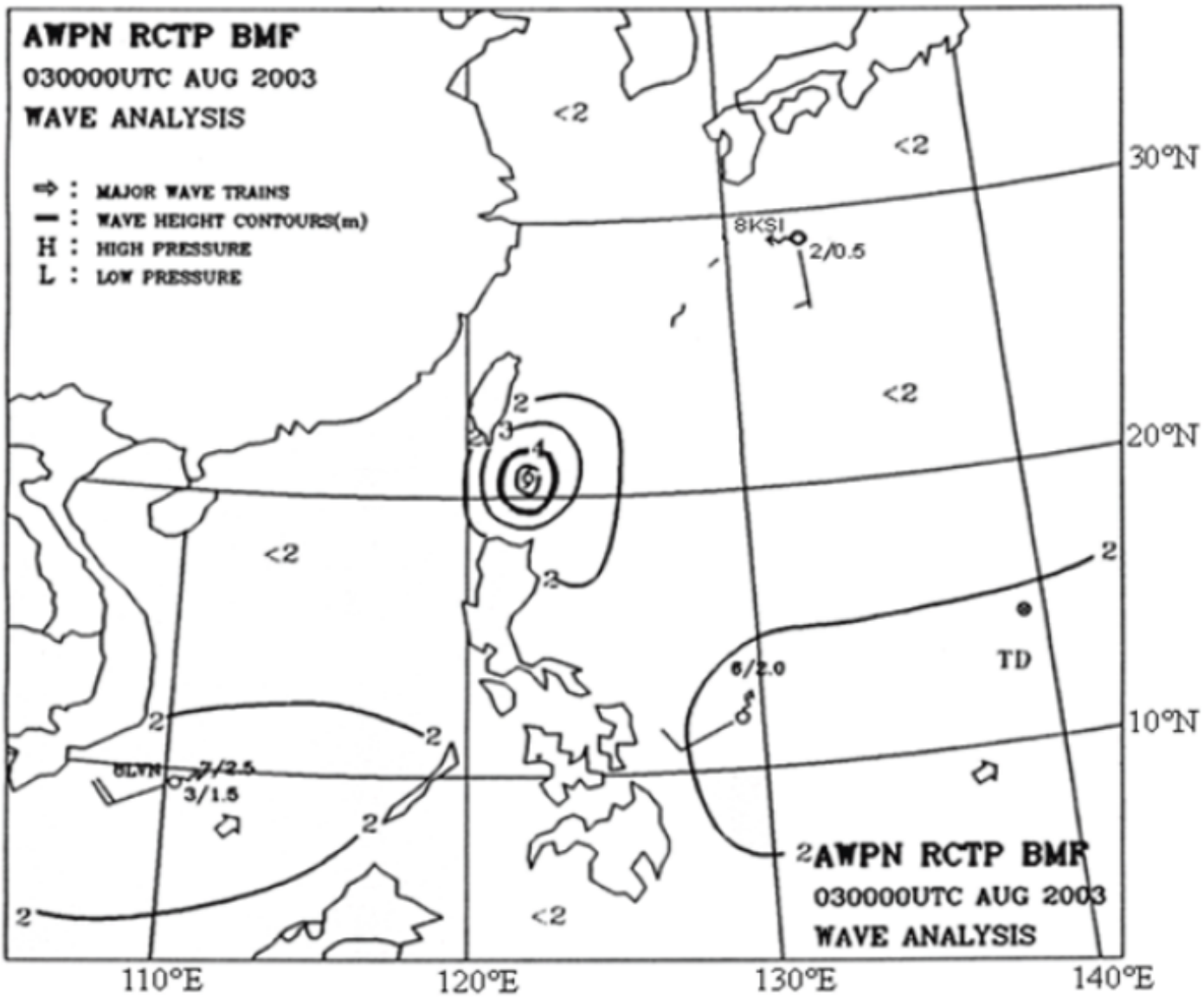

A. 2 m
B. 2 ft
C. 0.5 m
D. 0.5 ft

(A) 37. 有關當值航行員在航行當值期間應有之作為，下列何者正確？①應確切執行船長規定之航線、航向、風流壓差、主機轉速及各種航行指示②在任何情況下，未經船長許可，不得改變航向或主機轉速。
A. 僅①
B. 僅②
C. ①②
D. ①②均不正確

(D) 38. 下列何項不是船舶加入AMVER系統後可獲得的好處？
A. 緊急危難時，能獲得迅速之救援
B. 減少求助船之對外呼叫次數
C. 縮短提供救助之回應時間
D. 可準確掌握至目的港的ETA

(A) 39. 附圖為一海上測站填在天氣圖上的資料，則過去三小時的氣壓變化量是：

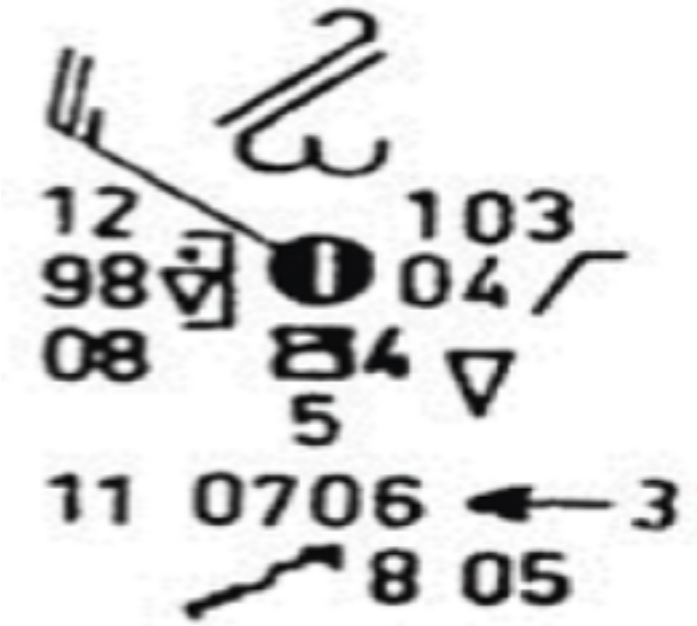

A. 上升0.4百帕
B. 上升10.3百帕
C. 下降0.4百帕
D. 下降10.3百帕

(C) 40. 飛機環繞水面救援船舶一圈，以搖擺機翼等之一連串動作表示意欲指引救援船舶執行下列何種事項？
A. 停止救援
B. 擴大搜救範圍
C. 前往遇險船舶
D. 縮小搜救範圍