113年第四次航海人員測驗【601】二等船副【000016】貨物作業概要

(A) 1. 貨物處理標誌英文專有名詞Use No Hook，其中文意義為何？
A. 勿用手鉤
B. 勿用重物
C. 勿用滑車
D. 勿用接環

(D) 2. 貨物體積英文專有名詞Bale Capacity，其中文意義為何？
A. 總噸位
B. 淨噸位
C. 散裝容積
D. 包裝容積

(D) 3. 依據貨物積載及繫固安全實務章程，可移動液槽係指非永久繫固於船上的液槽，其外殼配置外部穩定構件以及為運送氣體、液體或固體所需之附屬設備和結構設備，試問其裝載容量最小為何？
A. 150公升
B. 250公升
C. 350公升
D. 450公升

(A) 4. 某船載重量9000噸，油水及其他必要屬具之重量800噸，貨艙容積520000立方呎，如果裝載小麥（S.F. 52立方呎），問可裝多少噸？
A. 8200
B. 9000
C. 10000
D. 10500

(D) 5. 船舶穀物裝載，部分裝載艙間之穀面會垂向移動，其總傾側力矩之計算為何？
A. 計算所得之縱向傾側力矩之1.06 倍
B. 計算所得之橫向傾側力矩之1.06 倍
C. 計算所得之縱向傾側力矩之1.12 倍
D. 計算所得之橫向傾側力矩之1.12 倍

(C) 6. 下列那一圖示為起伏(Heave)？

A



B

C



D



A. 圖A
B. 圖B
C. 圖C
D. 圖D

(D) 7. 船舶穩定度依船舶傾斜的方向分為下列那二項？
A. 靜穩定度及動穩定度
B. 完整穩定度及受損穩定度
C. 初穩定度及全穩定度
D. 橫向穩定度及縱向穩定度

(D) 8. 裝載貨櫃繫固屬具中除可連接上下兩層貨櫃外，還可以用在縱向及橫向的連接，稱之為何？

A. 橋式連接器(Bridge Fitting)
B. 扭鎖(twistlock)
C. 定位錐(Positioning Cone)
D. 雙垂直堆積器(Double Stacking Cone)

(D) 9. 雜貨配載圖中，那種貨物裝在二層艙後部的下層？

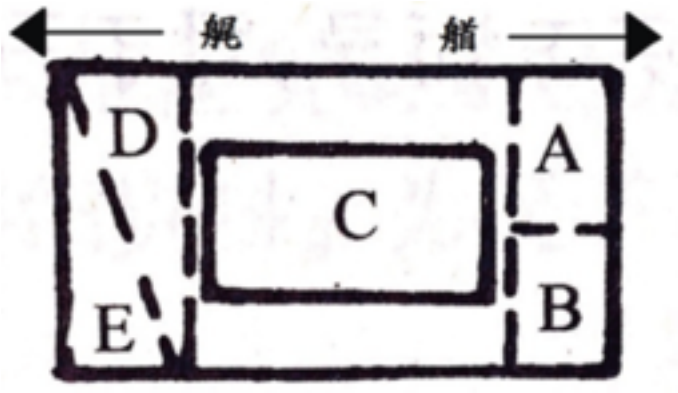

A. A 貨物
B. B 貨物
C. D 貨物
D. E 貨物

(A) 10. 請問Hogging意義為何？及船舶Hogging時船中下層甲板受力狀況為何？
A. Hogging是指中拱、下層甲板承受壓力
B. Hogging是指中拱、下層甲板承受拉力
C. Hogging是中垂，下層甲板承受壓力
D. Hogging是中垂，下層甲板承受拉力

(B) 11. 煤炭在自熱過程中，會產生何種有害氣體？
A. 硫化氫
B. 一氧化碳
C. 氮
D. 氫

(C) 12. 貨櫃裝船位置一般皆以6位數字編碼，中間兩位數字代表為Row No.下列敘述何者為錯誤？
A. 以船舯縱剖面為基準，自船中向左舷以02,04,06,08偶數表示
B. 以船舯縱剖面為基準，自船中向右舷以01,03,05,07奇數表示
C. 沿船寬方向往左右兩側裝載位置的垂向座標
D. 沿船寬方向往左右兩側裝載位置的橫向座標

(C) 13. 下列那一項為貨櫃船主要特性？
A. 只要所停靠之碼頭能讓艉部著陸板搭上，即可以拖車及車架將貨櫃拖運
B. 此型船能同時裝載各種車輛與貨櫃
C. 裝卸以橋式重型起重機處理，故裝卸迅速
D. 因可直接拖出，不必一定要儲存於貨櫃堆集場

(B) 14. 下列那一項是原油洗艙之缺點？
A. 可減少由洗艙所引起之海水污染
B. 增加卸油時間
C. 油艙內不含水份，因此可提高原油之品質，減少油水之混合乳化物
D. 可將艙壁或艙底之油渣溶解

(B) 15. 一般油輪固定式洗艙機洗艙的角度，均在事先決定，最高上仰角度可達到幾度？
A. 150
B. 153
C. 160
D. 163

(B) 16. 將低辛烷值之汽油，利用分子重組之方法，使其變成高辛烷值之汽油稱之為何？
A. 裂煉

B. 重組
C. 比熱
D. 提煉

(A) 17. 依據國際海運危險品準則的定義，下列哪一類危險貨物的共同特性為具化學爆炸性，對電、熱及磁場很敏感，易發生燃燒爆炸的危險，在爆炸形成的氣爆中會釋放出毒性及窒息性氣體？
A. 第1類
B. 第2類
C. 第3類
D. 第4類

(B) 18. 重量單位中，一短噸等於幾英磅？
A. 1000
B. 2000
C. 2200
D. 2240

(B) 19. 裝載穀類散裝船夏季淡水載重線之取得，係以夏季載重線為準，加以下列何者修正量？
A. 噸位
B. 淡水
C. 海水
D. 排水

(B) 20. 油輪裝貨時，貨油由岐管(Manifold)進入主管，再由垂管(Drop Line)進入艙底直達各艙，使用的泵浦係下列何種？
A. 船上貨油泵浦機
B. 終端站貨油泵浦機
C. 船上緊急滅火泵浦機
D. 終端站消防泵浦機

(C) 21. 有關貨艙通風換氣的目的，下列敘述何者不正確？
A. 防止艙內溫度上昇
B. 排出危險瓦斯
C. 使艙內露點上昇
D. 使艙內露點下降

(C) 22. 下列有關露點(Dew point)的敘述，何者正確？
A. 露點是保有現有水蒸氣之最高溫度
B. 溫度越高，露點越低
C. 露點越高，空氣越潮溼
D. 空氣溫度昇高至露點以上，多餘的水分凝結成水珠

(C) 23. 穀物散裝之運輸特性，灌斗設備，下列何者錯誤？
A. 穀物運送或振動船體皆可能讓穀物形成下沉現象
B. 灌斗設計可以減少穀物橫移空間
C. 灌斗排列以橫向設計
D. 灌斗貨物可以填補下沉現象騰出艙間

(C) 24. 穀物裝載前應取得相關書面資料，下列何者錯誤？
A. 穀物的積載因素
B. 貨艙穀物的平艙方法
C. 貨艙配置重量計劃
D. 貨物移動的可能性，靜止角

(A) 25. 下列那一項為強力塑膠面合板貨櫃之優點？
A. 內部容積較大
B. 質量較輕
C. 修理方便、費用低廉
D. 使用壽命較長

(B) 26. 某船之排水量為18000噸，當於靜水中傾斜2度時，其復原力臂GZ值為 0.8公尺，求該船復原力矩 (righting moment) 為何？
A. 13400公尺-噸
B. 14400公尺-噸
C. 15400公尺-噸
D. 16400公尺-噸

(B) 27. 有關船舶貨艙包裝容積之敘述，下列何者錯誤？
A. 40 立方呎為一噸
B. 兩舷外板內側、艙底板頂面至甲板橫樑下端間的容積
C. 兩舷艙壁肋骨內側、艙底板頂面至甲板橫樑下端間的容積
D. 兩舷側之墊材量至另一側墊材，艙底板至上甲板橫樑下緣之容積

(B) 28. 下列何種貨物運送溫度為-1℃~2℃間？
A. 凍結貨物
B. 冷溫貨物
C. 涼溫貨物
D. 常溫貨物

(C) 29. 依據國際海運危險品準則之規範，危險貨物包裝件之間的隔離若應採取「以介於其間的一完整艙間或貨艙做縱向隔離」方式，就艙面積載而言，這種隔離至少應有幾公尺的縱向距離？
A. 12公尺
B. 18公尺
C. 24公尺
D. 30公尺

(C) 30. 船舶浮於標準海水中，今裝上150噸之貨物，吃水平均增加6公分求其T.P.C為多少噸？
A. 15
B. 20
C. 25
D. 30

(B) 31. 貨油裝滿艙時，距離艙頂有一小段距離，此段高度稱為？
A. Quantity
B. Ullage
C. Cargo Plan
D. Load on Top

(C) 32. 最大繫固負荷為船舶繫固貨物設備之負荷能力，其稱為下列何者？
A. Maximum Weight Load
B. Maximum Safety Load
C. Maximum Securing Load
D. Maximum Capacity Load

(A) 33. 若某船之排水量增加，但復正力臂保持不變，則該船的復原力狀況應如何？
A. 增加

B. 減少
C. 保持不變
D. 無法決定

(C) 34. 在散裝固體貨物安全作業章程中，對一般隔離規定有幾種要求？
A. 8
B. 6
C. 4
D. 3

(D) 35. 依照貨艙容積比例分配各艙貨物重量時，船舶最易有何現象？
A. 縱向強度受損，且可能產生舯垂或舯拱
B. 縱向強度受損，且不可能產生舯垂或舯拱
C. 縱向強度不受損，且不可能產生舯垂或舯拱
D. 縱向強度不受損，但仍可能產生舯垂或舯拱

(D) 36. 某船在水線上之長度為128公尺，最大寬度為20公尺，水切線面積係數0.85，求在此水尺之TPC為多少噸？
A. 10.3
B. 15.3
C. 20.3
D. 22.3

(B) 37. 運煤之船隻，必須每天測量貨艙煤堆之溫度，若溫度達到多少℃時，就必須特別警戒？
A. 50
B. 60
C. 70
D. 80

(B) 38. 有關船舶載貨之載重能力，下列何者正確？
A. 是指該航次所能裝載荷重的最大重量
B. 是指該航次所能裝運貨物的最大限度重量
C. 是指該航次所能裝運的最大限度旅客及油水等的重量
D. 指該航次所能裝運的最大限度油水及壓載水等的總重量

(C) 39. 散裝船貨艙的包裝容積約為散裝容積的多少百分比(%)？
A. 80~84
B. 85~89
C. 90~95
D. 96~99

(B) 40. 下列何者最有可能在貨艙中設置隔艙板（Shifting Board）？
A. 礦砂船（Ore Carrier）
B. 穀物船（Grain Carrier）
C. 貨櫃船（Container Ship）
D. 汽車船（Car Carrier）