114年第四次航海人員測驗【601】二等船副【000016】貨物作業概要

(D) 1. 煤炭在船舶運送途中，測量貨艙煤堆之溫度，上升至多少度時，煤層內部可能已開始自燃？

A. 50℃
B. 60℃
C. 70℃
D. 80℃

(C) 2. 裝載蘋果最佳的艙內CO_2濃度為多少百分比(%)？
A. 2 ~ 3
B. 4 ~ 5
C. 8 ~ 10
D. 12 ~ 15

(C) 3. 高密度固體散裝貨物是指其S.F.在多少以下之固體散裝貨物？
A. 0.36m^3/t
B. 0.46m^3/t
C. 0.56m^3/t
D. 0.66m^3/t

(A) 4. 巴賽爾國際公約規範運送散裝固體廢棄物時，越境運輸時需有完成何者規定？
A. 輸出國通知輸入國，並取得書面同意
B. 輸入國通知輸出國，並取得書面同意
C. 輸出國通知船東，並取得書面同意
D. 輸入國通知船東，並取得書面同意

(C) 5. 專用穀物散裝之運輸特性，專用碼頭設施何者不適用？
A. 專用穀艙或專用駁船
B. 專用真空吸穀機及整平裝置
C. 裝卸貨以抓斗運作為主
D. 艙內整平用推土機

(B) 6. 冷凍貨櫃絕熱材料，其厚度依其導熱性能、安裝之部位與設計因素而定，一般約在多少之間？
A. 30至50公厘
B. 50至70公厘
C. 70至90公厘
D. 90至110公厘

(B) 7. 為避免太大之中垂(Sagging) 或拱曲(Hogging) 裝貨原則，下列何者正確？
A. 50%之貨重裝於舯各艙，50%之貨重裝於艏艉各艙
B. 60%之貨重裝於舯各艙，40%之貨重裝於艏艉各艙
C. 65%之貨重裝於舯各艙，35%之貨重裝於艏艉各艙
D. 70%之貨重裝於舯各艙，30%之貨重裝於艏艉各艙

(C) 8. 設G為船舶的重心，M為定傾中心，當船舶處於穩定平衡時，其GM值為何？
A. GM < 0
B. GM = 0
C. GM > 0
D. GM < 0.5

(B) 9. 下列哪一個最小乾舷係自夏期乾舷上，依照夏期水尺每公尺增加吃水1/48公尺計得之？
A. 夏期

B. 冬期
C. 熱帶
D. 冬期北大西洋

(B) 10. 運送廢棄物須遵守相關國際公約和建議案，但若以散裝海運方式，則應遵守下列何者之規範？
A. 貨物積載及繫固安全實務章程
B. 國際海運散裝固體貨物章程
C. 廢棄物處理國際公約
D. 國際海運危險品準則

(B) 11. 某船之艏吃水11m，艉吃水12m，今欲裝貨若干使船之吃水變成艏及艉均為12m，已知該船之TPC為25，MTC為500，求應裝多少噸貨物於俯仰中心之前？
A. 1000
B. 1250
C. 1500
D. 1750

(B) 12. 某船在一密度為1.005之港口中裝貨後，其平均吃水為10.5m，以此吃水再穩定性手冊中查得排水量為12800Tons，若該船之TPC為25，求實際排水量為多少噸？
A. 13050
B. 12550
C. 12350
D. 12150

(B) 13. 下列何種文件，是為船公司通知船上裝載某項貨物之憑證？
A. 理貨單
B. 裝貨單
C. 進口艙單
D. 出口艙單

(A) 14. 下列何種貨物液化後，其體積縮小為原體積之1/600？
A. 天然氣
B. 石油氣
C. 氮氣
D. 氨氣

(A) 15. 收貨時在收貨單上殘損短缺之批註，彙集紀錄，作為託運人要求賠償時之證明文件稱之為何？
A. Exception List
B. Grain Cargo Certificate
C. Deck Cargo Certificate
D. Tank Cleaning Certificate

(D) 16. 依據國際海運危險品準則（IMDG CODE）規定，貨櫃上標籤的規格不應小於多少尺寸？
A. 50 mm × 50 mm
B. 100 mm × 100 mm
C. 150 mm × 150 mm
D. 250 mm × 250 mm

(D) 17. 下列何種艙蓋在開關時較費時，但由於不占空間，因此廣為使用，尤其在多用途船上？
A. 翻立式（Rolling and tipping type）
B. 捲簾式（Roll stowing type）

C. 滑收式（Sliding type）
D. 吊舉式（Lifting type）

(A) 18. 在開艙時應儘量保持平正，若俯仰差太大時，可利用下列何項工具來控制艙蓋滑行速度？
A. Slack wire
B. Stopper
C. Compression bar
D. Packing

(B) 19. 用以專載車輛之汽車貨櫃具有何種特點？
A. 底盤上有四個輪溝用以卡牢車輛之用
B. 兩側前端及後端底有捆綁環用以繫牢車輛之用
C. 櫃內頂部及底部都有捆綁環用以繫牢車輛之用
D. 可裝載三層小客車

(A) 20. 某船空載之方塊係數是0.6，滿載時是0.75，已知其長64公尺，最大寬度為10公尺，空載平均水尺是1.5公尺，滿載平均水尺是4公尺，求載重量是多少噸？
A. 1377.6
B. 1477.6
C. 1577.6
D. 1677.6

(C) 21. 運煤之船隻，必須每天測量貨艙煤堆之溫度，若溫度繼續上昇時，下列何項為不當措施？
A. 停止通風
B. 灌注蒸汽或二氧化碳
C. 灌水降溫
D. 停靠最近之港口

(A) 22. 貨艙準備工作中的「驅除老鼠」事項，以何時處理為佳時機？
A. 裝貨前
B. 裝貨後
C. 航行中
D. 裝卸貨時

(A) 23. 維護與清潔大艙內的污水槽(Bilge)，以何時處理為佳時機？
A. 裝貨前
B. 裝貨後
C. 航行中
D. 裝卸貨時

(D) 24. 將污水槽蓋用麻布包好，並用膠布貼妥，其目的為何？
A. 防止發出臭味
B. 防止污水流入
C. 保持污水槽乾燥
D. 防止穀物掉進

(C) 25. 雜貨船裝載多種貨物時，圖示之A區貨物裝載於何處？

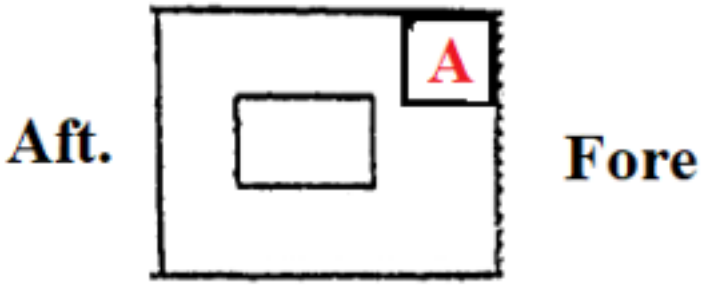

A. 大艙
B. 二層艙中部
C. 二層艙前部左舷
D. 二層艙前部右舷

(D) 26. 雜貨船在製作裝載計劃時對於港口狀況，下列何者有誤？
A. 季節載重線變換
B. 氣候與潮汐
C. 吊桿之負荷能力
D. 集中裝載於同一艙

(A) 27. 下列何者為非吸濕性貨物？
A. 玻璃、鋼板
B. 穀類、種子
C. 木材、椰乾
D. 煙草、麵粉

(A) 28. 在寒帶地方裝載穀類貨物，開往熱帶地方，應如何照護？
A. 未高出艙外露點時，不需要通風
B. 不需要通風
C. 未高出艙外露點時，需要通風
D. 需要通風

(D) 29. 裝載桶裝貨物時為防止移動或擺壓，在底下墊以何種墊艙材料較佳？
A. 角材
B. 短材
C. 板材
D. 楔子

(B) 30. 一噸貨物裝載艙中，所佔立方體積之平均數，稱為？
A. 積載圖
B. 積載因數
C. 裝載損耗
D. 貨艙容積

(A) 31. 就標籤大小的規格，除非因爲包裝之形式與大小問題而只能黏貼較小標誌，否則包裝上之標誌不應小於？
A. 10cm x 10 cm
B. 15cm x 15 cm
C. 20cm x 20 cm
D. 25cm x 25 cm

(C) 32. 貨櫃化運輸最大之優點是什麼？
A. 適合所有之貨物
B. 裝卸費用增加

C. 作業簡化，專責運輸
D. 貨物保險費用增加

(A) 33. 依據IMDG Code的規範，下列關於圖示標籤為何種貨物？
A. 毒性氣體
B. 可燃固體
C. 腐蝕性物質
D. 易於自燃物質

(B) 34. 國際散裝穀類安全載運章程規定，經過液艙自由液面效應修正後的初定傾高度不應小於多少公尺？
A. 0.20 公尺
B. 0.30 公尺
C. 0.40 公尺
D. 0.50 公尺

(D) 35. 下列敘述中，何者屬於折立式艙蓋？
A. 軌鍊型
B. 艏艉向滑動型
C. 動鏈型
D. 液壓缸頂力型

(C) 36. 此側向上 (This Side Up)，稱之為何種標誌？
A. 貨物圖案商標
B. 港口標誌與貿易標誌
C. 處理標誌
D. 宣傳標誌

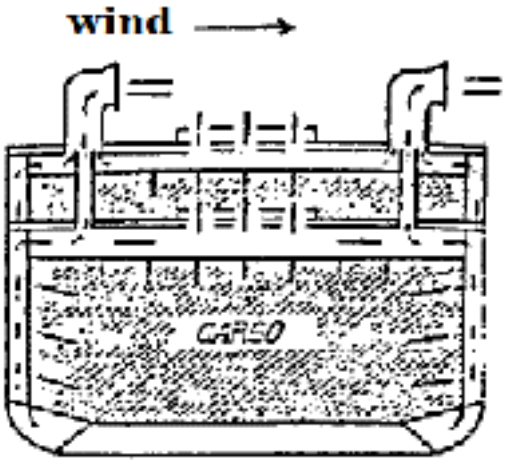

(A) 37. 附圖所示係指何種通風換氣法？
A. 消極通風
B. 積極通風法
C. 表面通風法
D. 通風調節

(B) 38. 通風換氣法中的機械通風，進排氣之運作方式何者為宜？
A. 進氣為機械通風，排氣為自然通風
B. 進氣為自然通風，排氣為機械通風
C. 進氣/排氣皆為自然通風
D. 進氣/排氣皆為機械通風

(B) 39. 為防止上甲板貨物之移動，可以採用支柱法固定；下圖中何者可以防止貨物向上浮起？

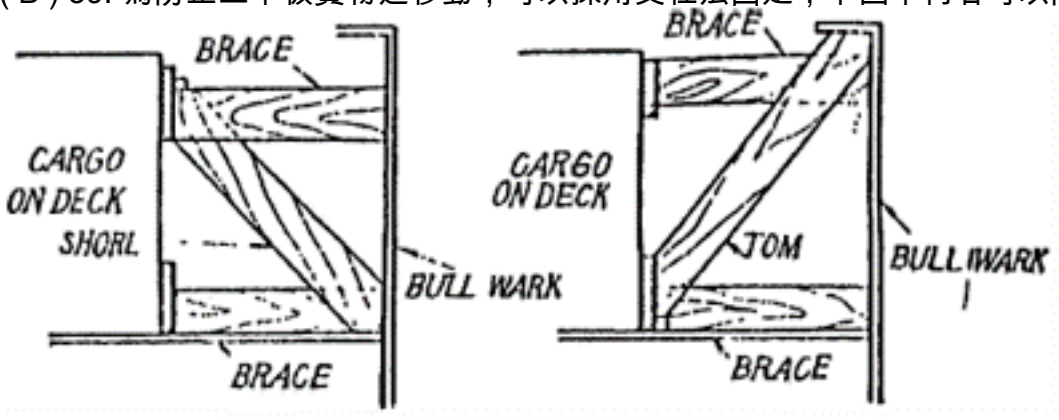

A. 一般支柱 (Shores)
B. 逆支柱 (Toms)
C. 上水平支柱 (Braces)
D. 下水平支柱 (Braces)

(A) 40. 裝載木材或其他甲板貨物時，採用固縛法(Lashing)以防止其移動，下列何項工具不適合使用？
A. 馬尼拉繩
B. 繫栓桿
C. 鋼索
D. 鍊條